ACTIVIDADES DIVERTIDAS

CUADERNILLO PARA

EMPEZAR BIEN *el día*

5º GRADO

MATERIAL PARA MAESTROS

Ficha
1

Parecidas pero no iguales

Nombre _____ Fecha _____

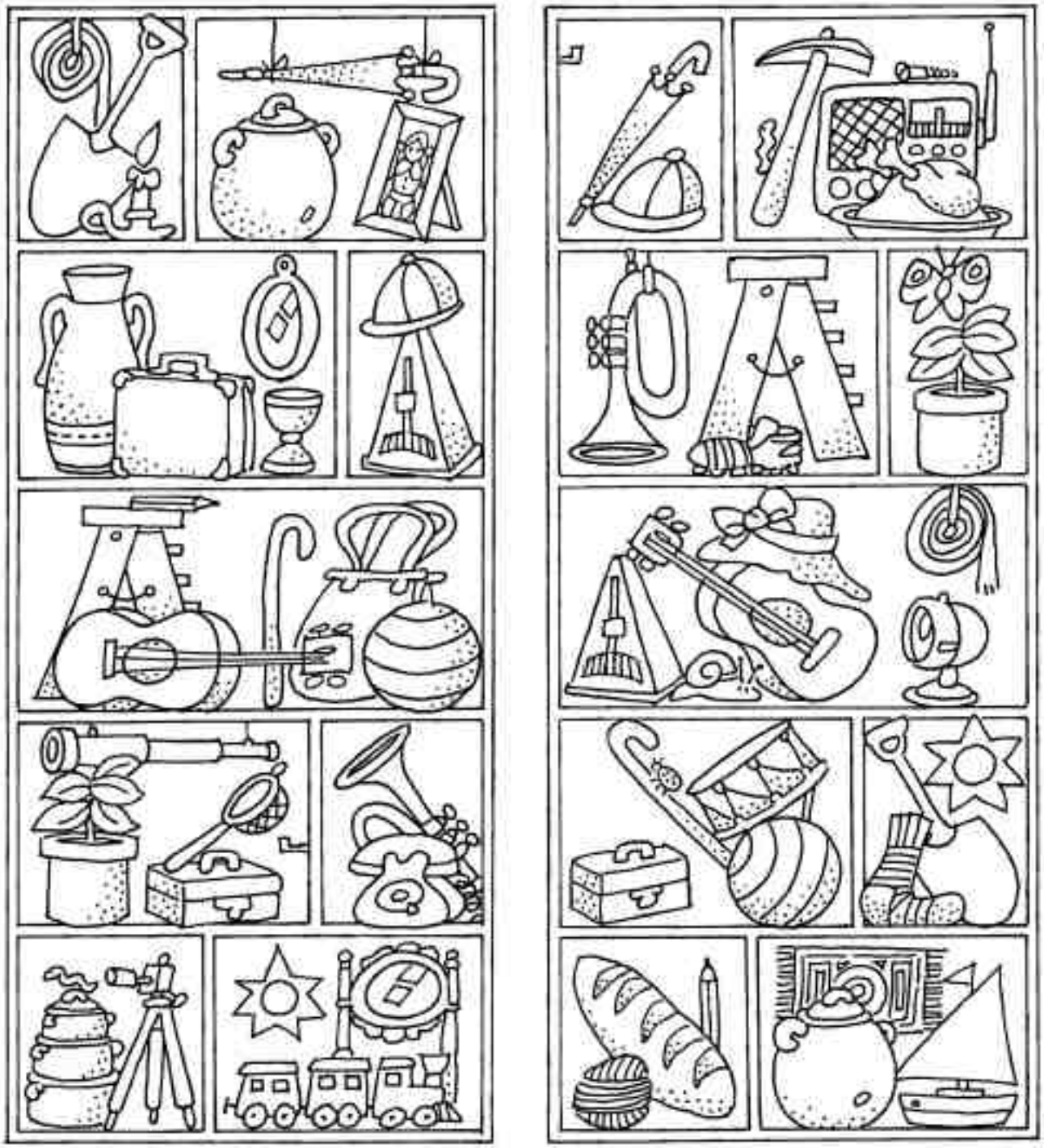

Aunque parezcan iguales, entre estas dos estanterías hay algunas diferencias.

- Pinta de rojo los objetos que están en las dos estanterías.
- Pinta de verde los objetos que están sólo en la estantería de la izquierda.
- Pinta de azul los objetos que están sólo en la estantería de la derecha.

Ficha
2

De todo un poco

Nombre _____ Fecha _____

¿Qué hay en este dibujo? Primero, marca las siluetas de los objetos y animales con diferentes colores. Después, escribe sus nombres en orden alfabético.

Ficha
3

¿Tienes buena vista?

Nombre _____ Fecha _____



Observa con atención estas flores. Después, responde a las siguientes preguntas:

- ¿Qué flor de las pequeñas es igual a la grande?
- ¿Qué dos flores pequeñas son exactamente iguales?
- ¿Qué flor se corresponde con la flor sombreada?

Ficha
4

El entomólogo en acción

Nombre _____ Fecha _____

Luis, el entomólogo, desea ampliar su colección de mariposas. Pero quiere que todas sean diferentes. Entre estas mariposas hay dos con la misma forma, una pequeña y otra grande, ¿cuáles son? Rodéalas.

Además, al numerarlas, Luis se ha saltado un número, ¿cuál es? Escríbelo.

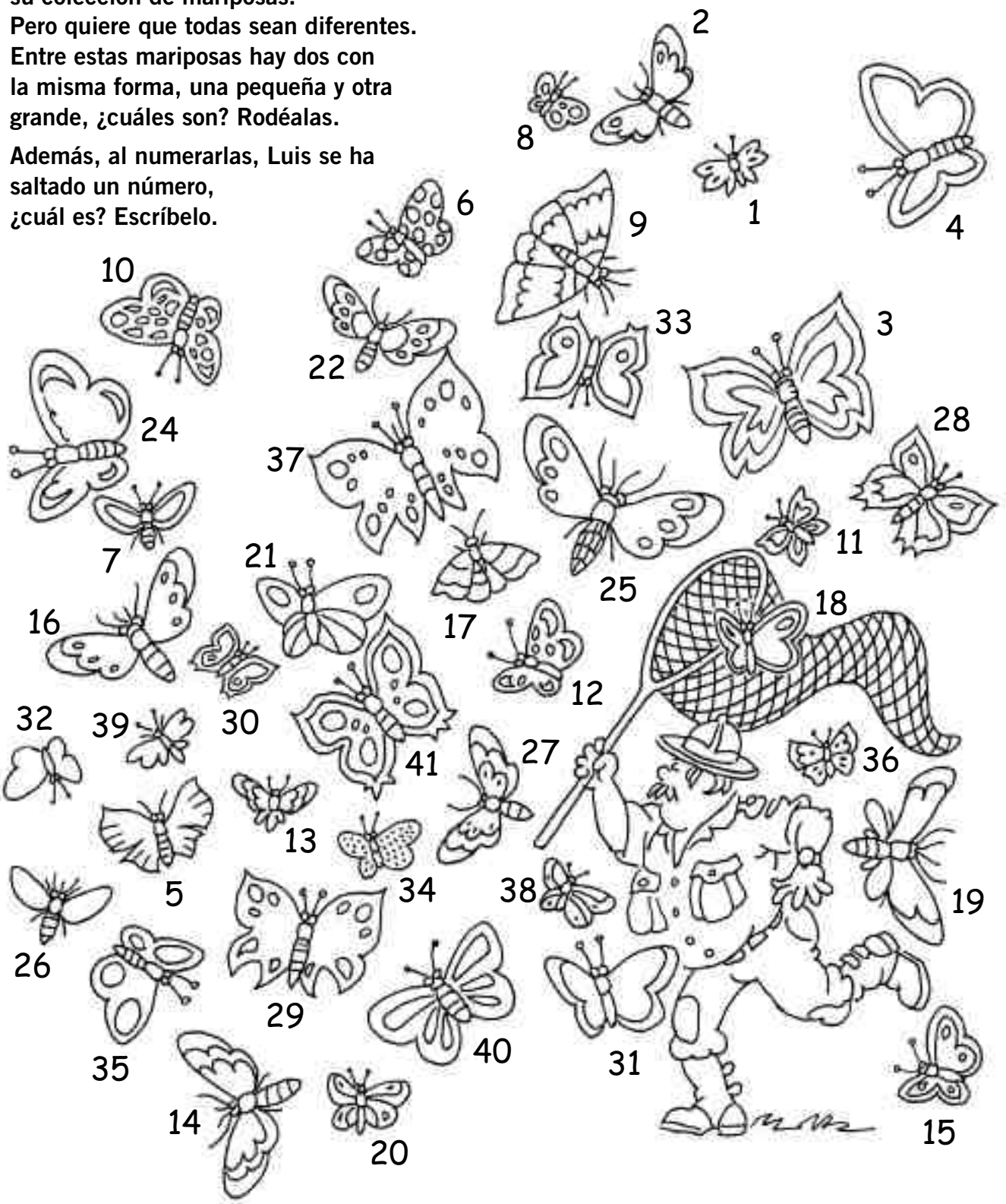

Ficha
5

El vestuario de los comediantes

Nombre _____ Fecha _____



Los actores utilizan diferente vestuario según la obra que tengan que representar. Por ello, en la ilustración de arriba van vestidos de una forma y en la de abajo, de otra.

- Colorea de rojo las prendas de ropa de la ilustración de arriba que no se han utilizado en la ilustración de abajo.
- Colorea de azul las prendas de ropa de la ilustración de abajo que no se han utilizado en la ilustración de arriba.

Ficha
6

¿Qué ha fotografiado Marcos?

Nombre _____ Fecha _____

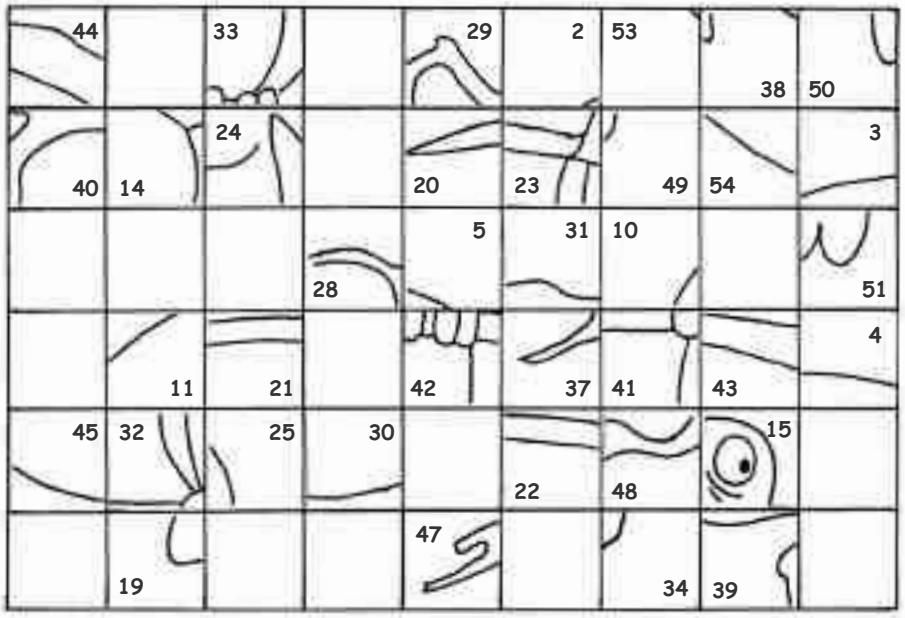



Copia cada pieza en su lugar correspondiente en el cuadro de abajo y descubre qué ha fotografiado Marcos.

1	2	3	4	5	6	7	8	9
10	11	12	13	14	15	16	17	18
19	20	21	22	23	24	25	26	27
28	29	30	31	32	33	34	35	36
37	38	39	40	41	42	43	44	45
46	47	48	49	50	51	52	53	54

Ficha
7

Figuras locas

Nombre _____ Fecha _____

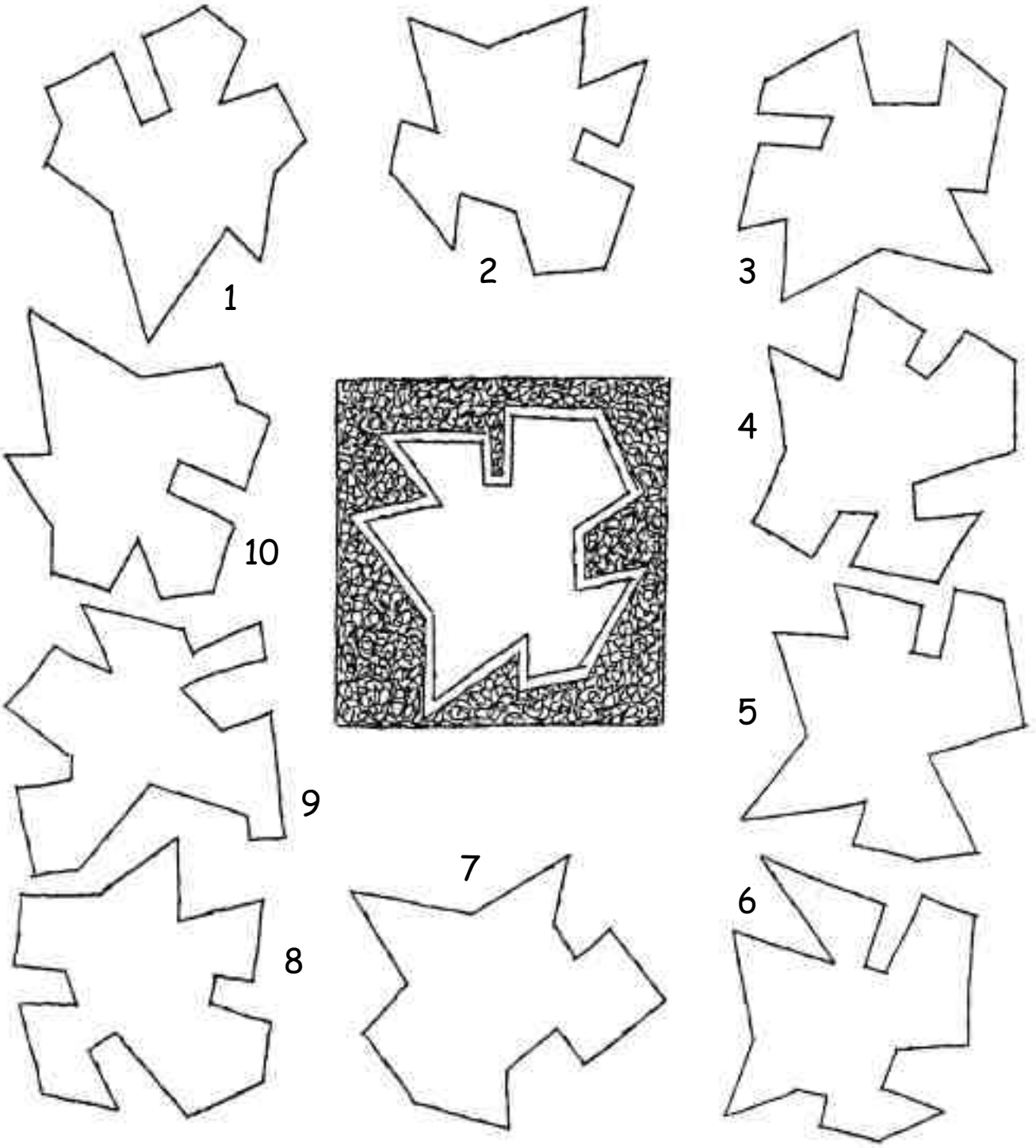

Observa estas figuras. Sólo una se corresponde con la del centro, ¿cuál es? Coloréala de rojo.

Localiza dos parejas de figuras idénticas entre ellas y colorea cada pareja de un color diferente.

Ficha
8

Aquí sobran piezas

Nombre _____ Fecha _____



Observa las piezas y pinta del mismo color las que forman parte de cada uno de los jarrones. Ten en cuenta que te sobrarán piezas.



Ficha
9

Problemillas de palillos

Nombre _____ Fecha _____

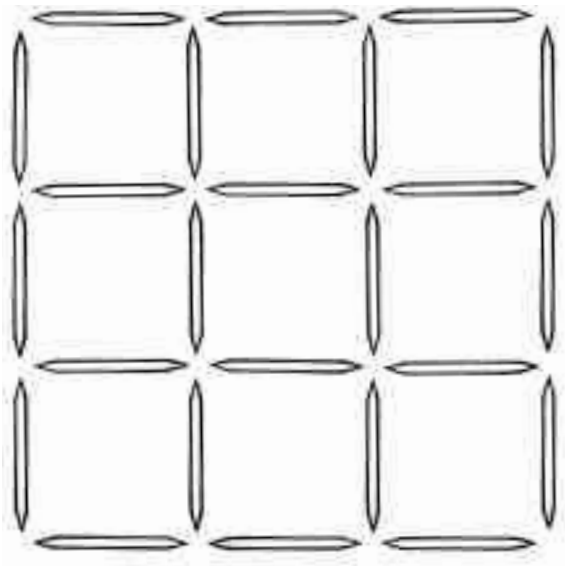

Palillos mágicos

- Quita 8 palillos, de manera que queden 5 cuadrados.
- Quita 6 palillos, de manera que queden 5 cuadrados.
- Quita 4 palillos, de manera que queden 5 cuadrados.

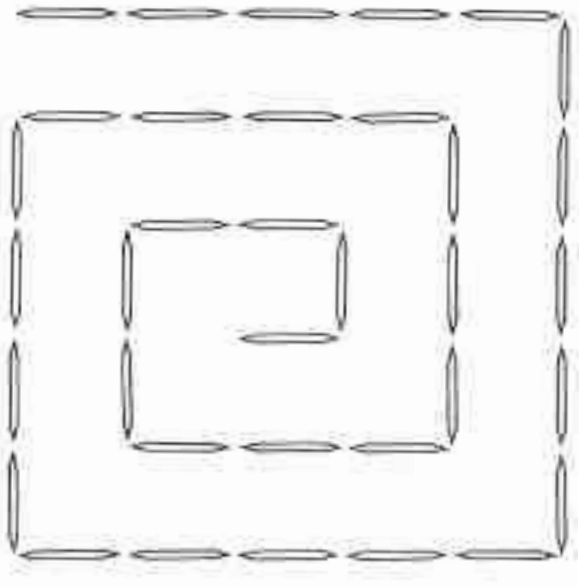

Espiral de palillos

Cambia de lugar 4 palillos y forma 4 cuadrados.

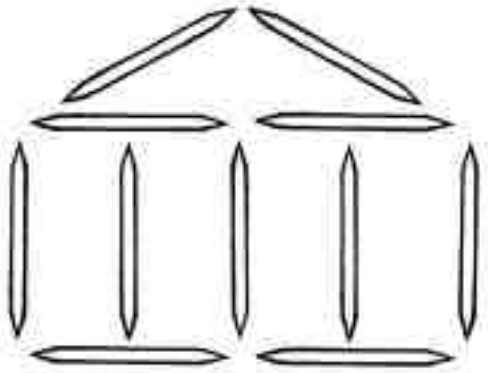

El Partenón de los palillos

Cambia de lugar sólo 2 palillos, de modo que obtengas 10 cuadrados.

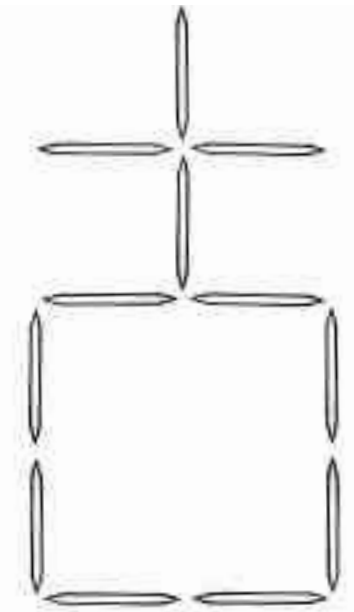

Cruces y cuadros

Cambia de lugar 5 palillos, de manera que consigas 3 cuadrados iguales.

Ficha
10

Una hormiga famosa

Nombre _____ Fecha _____



Dibuja cada pieza en su lugar y descubre qué está haciendo la hormiga.

1	2	3	4	5	6	7
8	9	10	11	12	13	14
15	16	17	18	19	20	21
22	23	24	25	26	27	28
29	30	31	32	33	34	35

Ficha
11

Perros guardianes

Nombre _____ Fecha _____



Las personas que viven en esta urbanización han decidido proteger sus casas con perros. Como verás, ya hay uno en la urbanización. Tu misión es situar el resto de los perros, teniendo en cuenta estas indicaciones:

1. Los números de la parte superior indican cuántos perros tiene que haber en cada columna. Los números de la izquierda indican cuántos perros tiene que haber en cada fila.
2. Cada perro se sitúa en la casilla que se encuentra encima, al lado o debajo de la casa que guarda.
3. No hay perros en las zonas de agua.
4. Los perros no pueden estar en contacto, ni siquiera en diagonal.

Ficha
12

Una finca para ocho hermanos

Nombre _____ Fecha _____



Un padre quiere dividir la finca que posee entre sus ocho hijos. La única condición que ha puesto es que cada una de las ocho parcelas resultantes debe tener la misma extensión y los mismos elementos:

- una casa
- un árbol
- una vaca
- una fuente
- un espantapájaros.

¿Cómo dividirá la finca? Utiliza diferentes colores para marcar las parcelas.

Como en una misma parcela no puede haber dos elementos iguales, puedes pintar una línea entre los dibujos que sean iguales y que estén contiguos (ya hemos colocado una por ti).

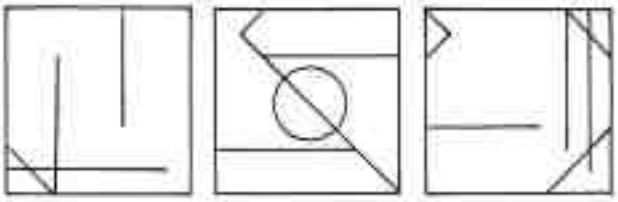

El logotipo de la finca

Los ocho hermanos quieren identificar sus parcelas con un mismo logotipo. Tres de ellos han diseñado un modelo (los tres de arriba). A los otros cinco hermanos les han gustado mucho los tres modelos. Por ello, los han agrupado en uno solo. ¿Cuál es de estos tres? Rodéalo.

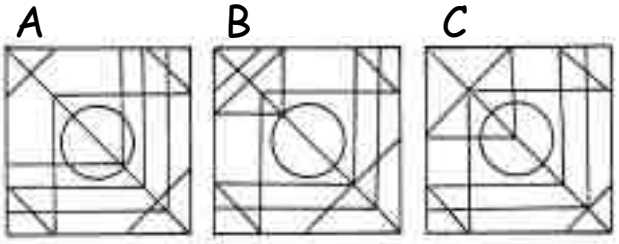

Ficha
13

Buscando los números perdidos

Nombre _____ Fecha _____

Suma en clave

¿Qué número representa cada animal? Descubre los números y resuelve la suma.

Un consejo: averigua primero el número que representa la gallina.

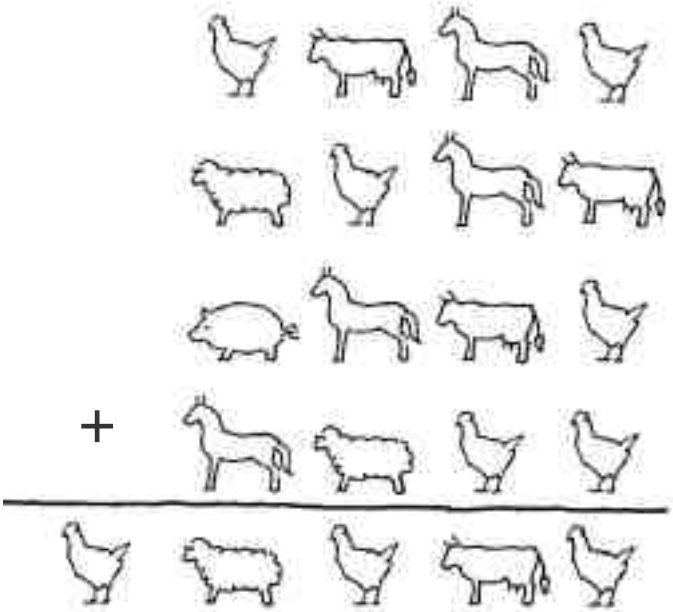

				5
	×		1	
	2			5
1	3		0	
+				
4		7	7	

Números desaparecidos

¿Qué números faltan? Averigua los números que han desaparecido y resuelve la multiplicación.

Triángulos numéricos

Coloca un número entre el 1 y el 12 en cada una de las casillas, de forma que las casillas de cada uno de los tres triángulos grandes sumen siempre 42. Cada número sólo se puede utilizar una vez.

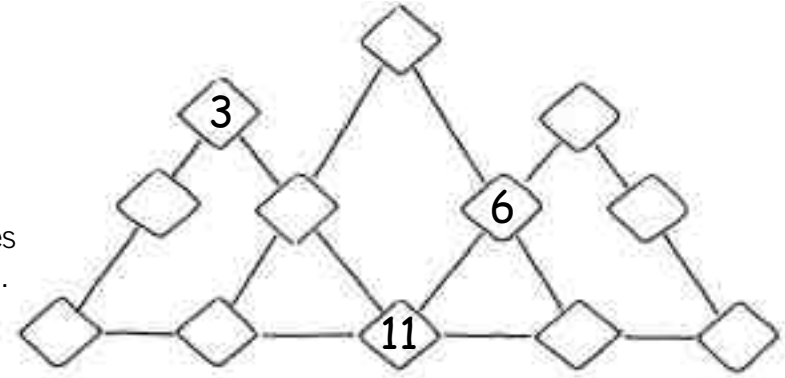

¡A jugar con números!

Nombre _____ Fecha _____

Multiplicación astral

Averigua el valor de cada dibujo
y resuelve la multiplicación.



Operaciones mágicas

Piensa y escribe los signos que faltan en cada operación
para que el resultado sea el indicado.

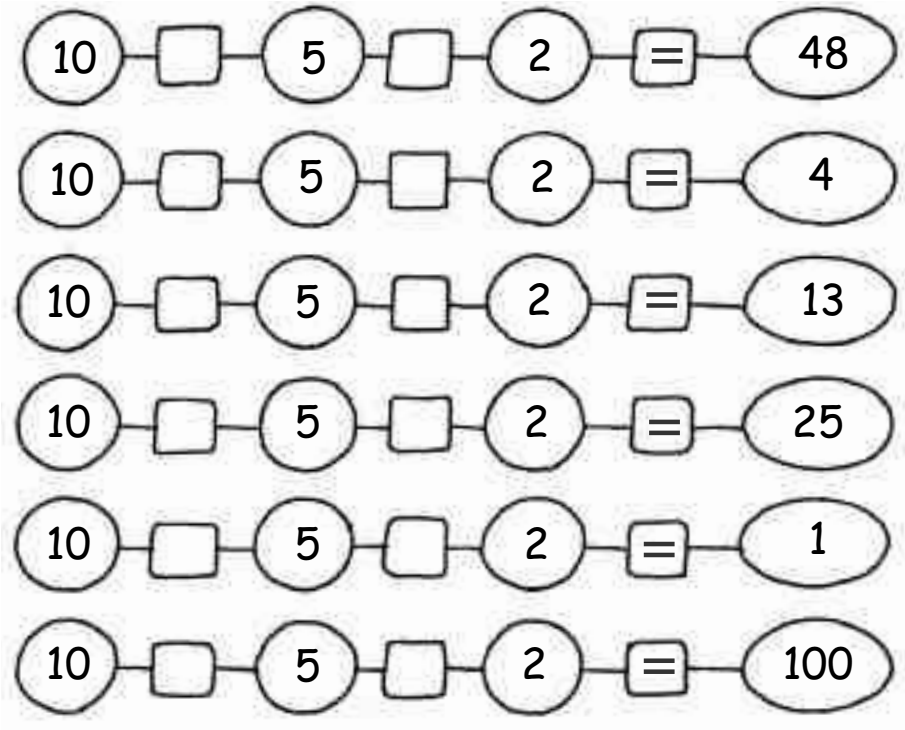

Las caras ocultas

Calcula el total de
los puntos de las
caras que no se ven
de los dados.
Recuerda que en los
dados los números
van del 1 al 6.

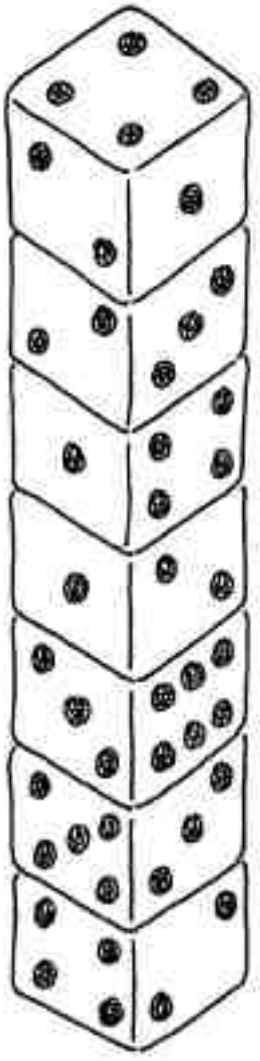

Ingenio matemático

Nombre _____ Fecha _____

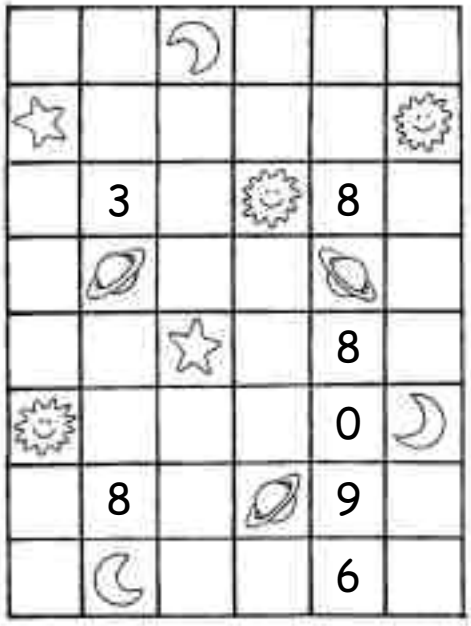

Numerograma

Sitúa en el lugar correspondiente los siguientes números. Para ayudarte, ya hemos incluido algunos en su lugar.

23	136	482	7820
25	143	648	~~8096~~
32	278	828	8765
42	289	922	8902
60	309	966	
69	383		
83	428		
92			

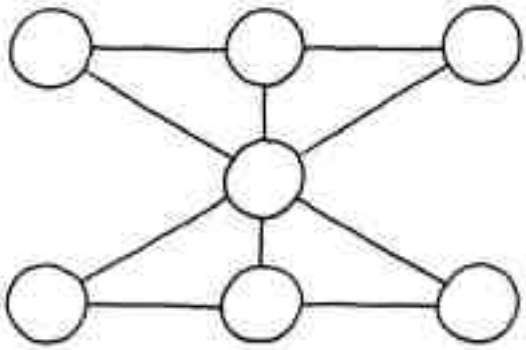

Figura mágica

Coloca en cada casilla un número del 1 al 7, de forma que las rectas sumen siempre 12. Sólo puedes utilizar cada número una vez.

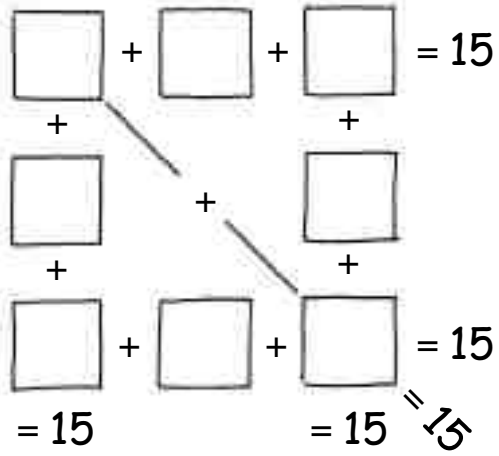

Siempre igual a 15

Coloca en cada cuadro un número del 1 al 8, de forma que las operaciones indicadas sumen siempre 15. Sólo puedes utilizar cada número una vez.

1 2 + 3 4 5 6 7 - 8 9 = 100

Operación inacabada

Sitúa entre los números los signos que faltan (+, −, ×, :) para que el resultado sea 100.

Ficha
16

Pequeños extraterrestres

Nombre _____ Fecha _____













¿Cuánto pesan los extraterrestres?

Observa los dibujos y calcula el peso de cada uno de ellos.

= .....

= .....

= .....

= .....

= .....

Ficha
17

Trasvases ingeniosos

Nombre _____ Fecha _____

Rubén y su amigo tienen seis cubos de diferentes tamaños: 3 litros, 4 litros, 5 litros, 7 litros, 8 litros y 9 litros.

Explica, en quince minutos, cómo podrán medir las siguientes cantidades con los cubos que se indican.

- 3 litros utilizando los cubos de 4 y 7 litros.
- 11 litros utilizando los cubos de 8 y 5 litros.
- 3 litros utilizando los cubos de 9 y 4 litros.
- 13 litros utilizando los cubos de 9 y 5 litros.
- 1 litro utilizando los cubos de 3 y de 8 litros.

Problemas muy dulces

Nombre _____ Fecha _____

¿Cuánto vale cada dulce?

Los hermanos Pérez están dispuestos a gastarse sus ahorros en dulces. Pero no saben cuánto cuesta cada uno de ellos. ¿Les puedes ayudar?

Cada tipo de dulce tiene un precio. Los números situados a la izquierda y en la parte superior indican lo que valen todos los dulces de cada fila o de cada columna, respectivamente.

Los pasteles

En esta pirámide cada pastel vale la suma de los pasteles que están debajo de él.

Completa la pirámide con los números que faltan.

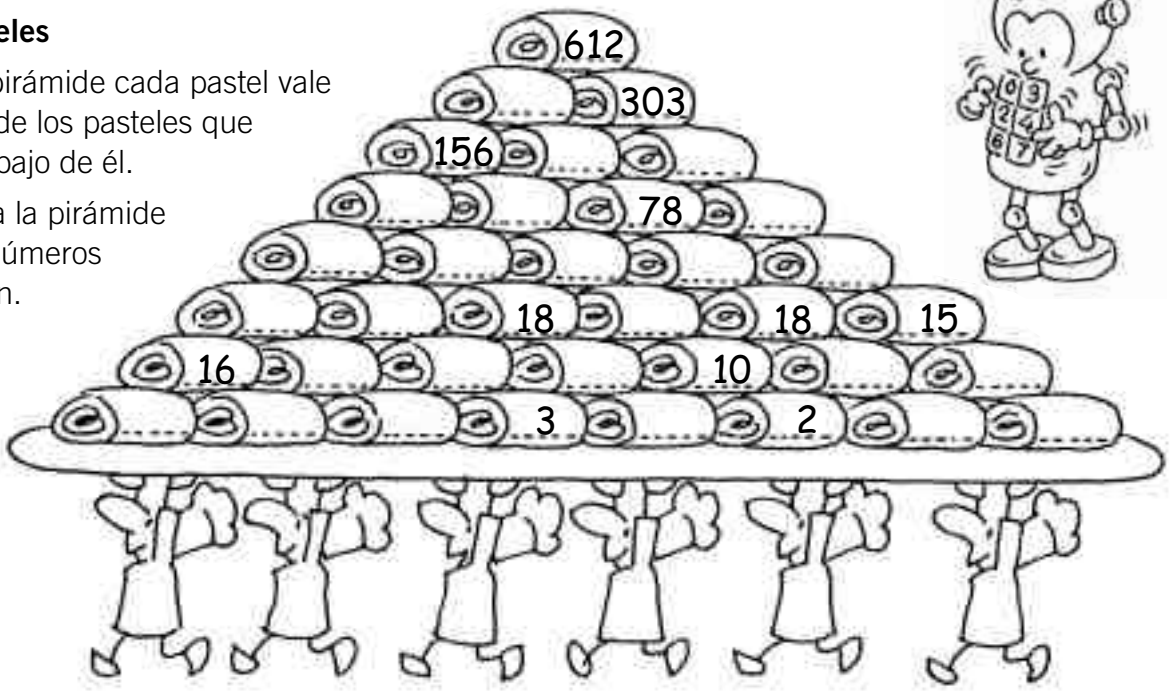

Ficha
19

¡Vaya vendaval!

Nombre _____ Fecha _____

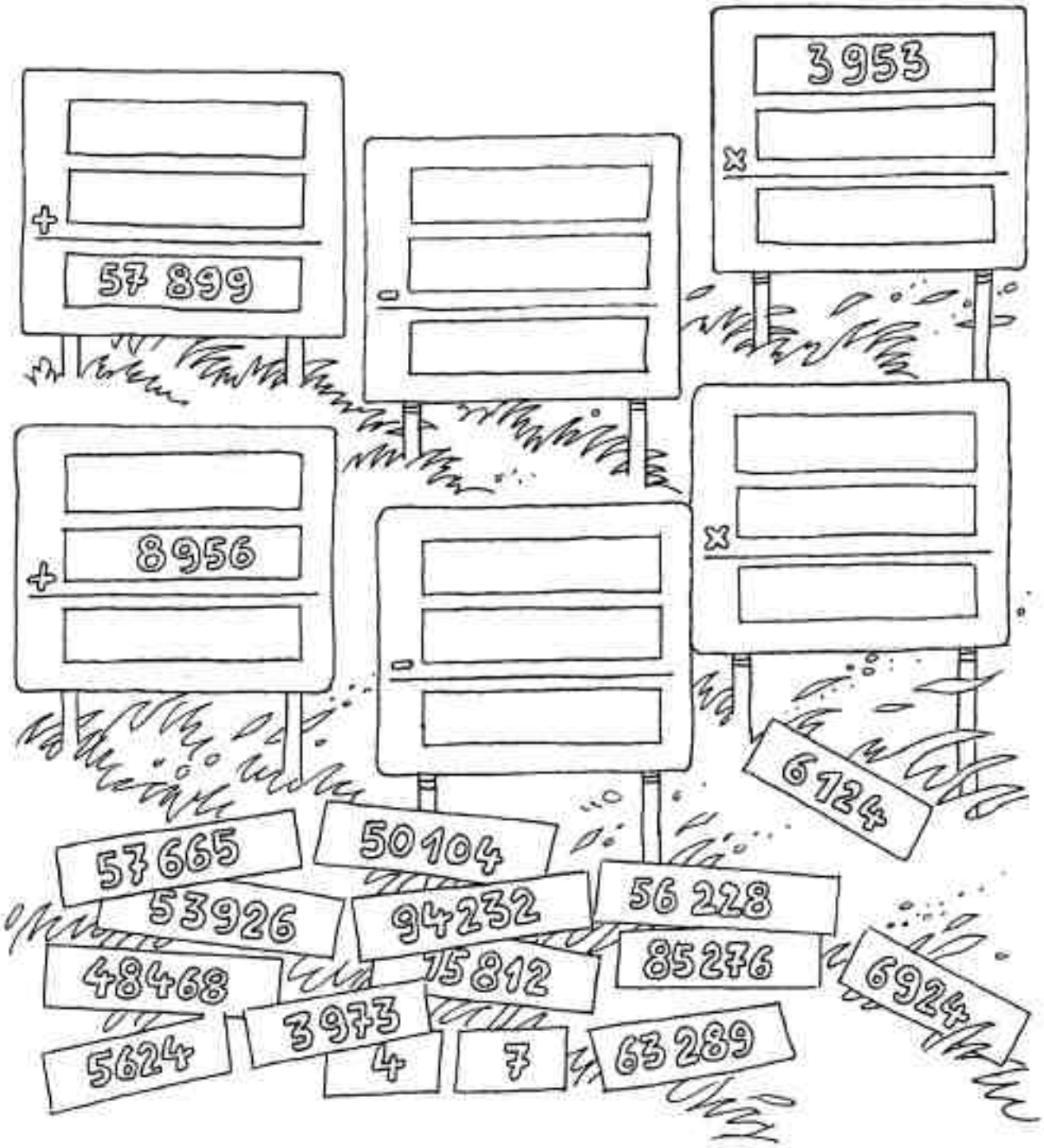

Juan y Lola están preparando el concurso anual de operaciones aritméticas. De repente, se ha levantado un fuerte viento y ha tirado casi todos los rótulos al suelo. Por suerte, han quedado en su sitio los suficientes para saber dónde tiene que ir el resto.

Ayuda a Juan y a Lola a colocar los rótulos en el lugar adecuado.

Ficha
20

Operaciones encadenadas

Nombre _____ Fecha _____

	:		=	2
:		+		×
	×	3	=	
=		=		=
3	×		=	36

2	+		=	
×		−		−
	+		=	30
=		=		=
36	:		=	2

3	×		=	36
+		−		:
	+		=	12
=		=		=
	−		=	

36	:		=	2
:		:		+
12	−		=	
=		=		=
	+	2	=	

12	−		=	
×		×		×
	×	2	=	
=		=		=
	−		=	18

	+	2	=	
×		+		×
	×		=	18
=		=		=
	×	5	=	



Las operaciones de estas cuadrículas están incompletas y hay que terminarlas. La particularidad que tienen es que unas operaciones están relacionadas con otras: se encadenan en horizontal y en vertical. Hay que conseguir que todo encaje. Seguro que lo puedes conseguir sin grandes esfuerzos.

Ficha
21

Provisiones contra el calor

Nombre _____ Fecha _____



Pilar, Mario, Pedro y Marina han comprado 100 latas de refrescos para la fiesta de carnaval.

Lee los siguientes datos y averigua cuántas latas ha comprado cada niño.

- Mario y Marina han comprado tantas latas como Pilar y Pedro.
- Pilar ha comprado 10 latas menos que Mario y Marina juntos.
- Mario ha comprado 10 latas más que Pedro.

Pilar _____ Mario _____ Pedro _____ Marina _____

Ingenio e imaginación

Nombre _____ Fecha _____

¿Qué edad tiene cada una?

Calcula la edad de Carlota, Luisa y Elena a partir de estos datos.

- Carlota, Luisa y Elena tienen 88 años entre las tres.
- Elena tiene el triple de años que Carlota y el doble que Luisa.
- Las edades de dos de las chicas suman 40 años.



Carlota ☐ **Luisa** ☐ **Elena** ☐

Caretas numéricas

Emilio ha inventado una forma diferente de representar los números.
Observa cómo ha escrito el número 17.048 y deduce la clave. Después, resuelve la suma y la multiplicación de abajo utilizando el lenguaje de caras inventado por Emilio.



Gimnasia cerebral

Nombre _____ Fecha _____



+				
				8

+				
				8

+				
				8

Suma de muñecos

Los números de esta suma se han sustituido por muñecos de peluche. Averigua el valor de cada muñeco partiendo de lo que suman el patito y la ardilla.

Puedes ir probando en los espacios de la derecha.

Los problemas de Robotín

Robotín no entiende cómo con los mismos números se pueden obtener diferentes resultados. Ayúdale a completar las siguientes operaciones con los signos **+**, **−**, **×**, **:** y **( )**.

(5 + 5) + (5 – 5) = 10
5 5 5 5 = 20
5 5 5 5 = 15
5 5 5 5 = 75
5 5 5 5 = 120
5 5 5 5 = 1
5 5 5 5 = 11

Sumacosas

Nombre _____ Fecha _____

Cada uno de los dibujos representa un número que va del 0 al 9. Averigua el valor de los dibujos, sabiendo que la suma de cada fila y de cada columna tiene que dar el número indicado.

Ficha
25

¿Cómo se llama este robot?

Nombre _____ Fecha _____

Nuestro amigo el robot ha sido bautizado con un nombre muy curioso. Para descubrirlo, resuelve estas seis pruebas y escribe su nombre en los espacios situados en la frente del robot.

Prueba número 1

Suma los números que aparecen en la calculadora del robot. Después, divide la cifra que obtengas por el número más alto de los de la calculadora.

PRIMER NÚMERO ☐

Prueba número 2

Suma el resultado de la primera prueba al número de antenas del robot y obtendrás el número de esta prueba.

SEGUNDO NÚMERO ☐

Prueba número 3

En este cuadrado mágico la suma de cada horizontal, vertical y diagonal da el mismo resultado: 65. El número que falta en la primera casilla es el resultado de la prueba 2. El número que corresponde a la casilla sombreada es el de esta prueba.

TERCER NÚMERO ☐

	12		23	1
18		4		15
2		13	16	
	19	22	5	
	3			17

Prueba número 4

Suma los números de las tres primeras pruebas y, al resultado, réstale el doble del número de ojos que tiene el robot.

CUARTO NÚMERO ☐

Prueba número 5

Averigua el número que falta en esta serie.

12 13 15 18 ☐ 27 33

QUINTO NÚMERO ☐

Prueba número 6

En esta suma el número 21 está representado por las figuras ○ □. Encuentra el valor de ⬡ y tendrás el número de esta prueba.

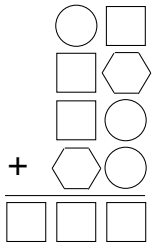

SEXTO NÚMERO ☐

Ahora ya puedes saber el nombre del robot. Primero, ordena los números en el orden inverso a como los has obtenido: prueba 6, prueba 5… Luego, transforma los números en letras siguiendo el orden alfabético (A = 1; B = 2; C = 3…). Por último, escribe cada letra en su casilla.

Números y más números

Nombre _____ Fecha _____

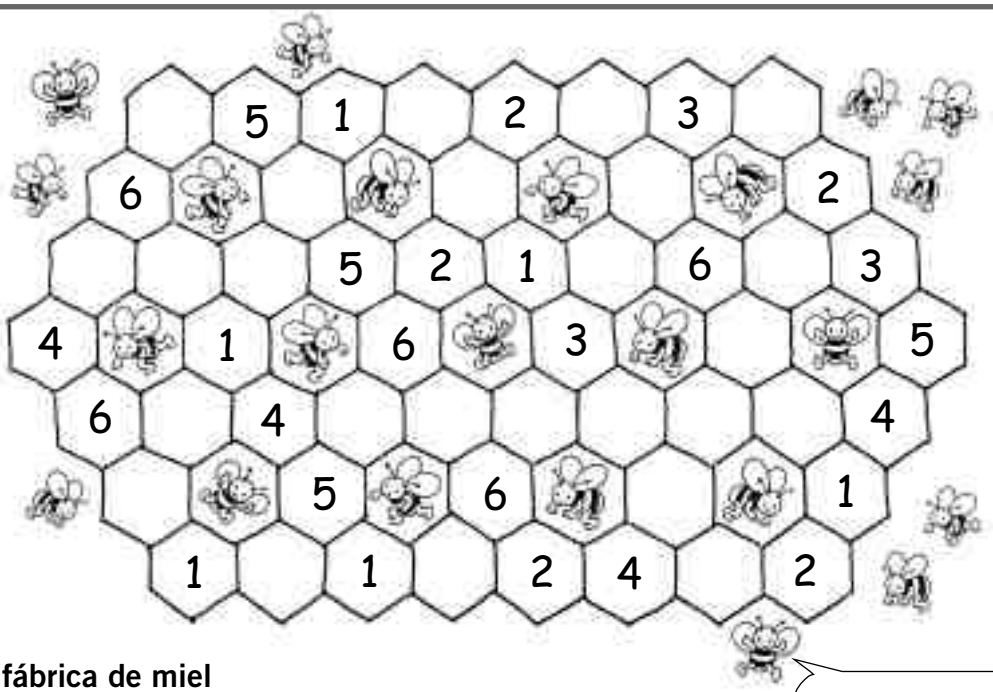

La fábrica de miel

Escribe los números del 1 al 6 en las celdas que rodean a cada abeja, teniendo en cuenta que no se puede poner el mismo número en celdas contiguas.

Comienza por las celdas situadas alrededor de la abeja del centro de la colmena.

La floristería de los números

Cada flor representa un número del 1 al 6.

Averigua el valor de las flores, sabiendo que la suma de cada fila y de cada columna da el número indicado.

Un consejo: lo más fácil es comenzar por la fila que suma 7.





Las siete casas

Nombre _____ Fecha _____

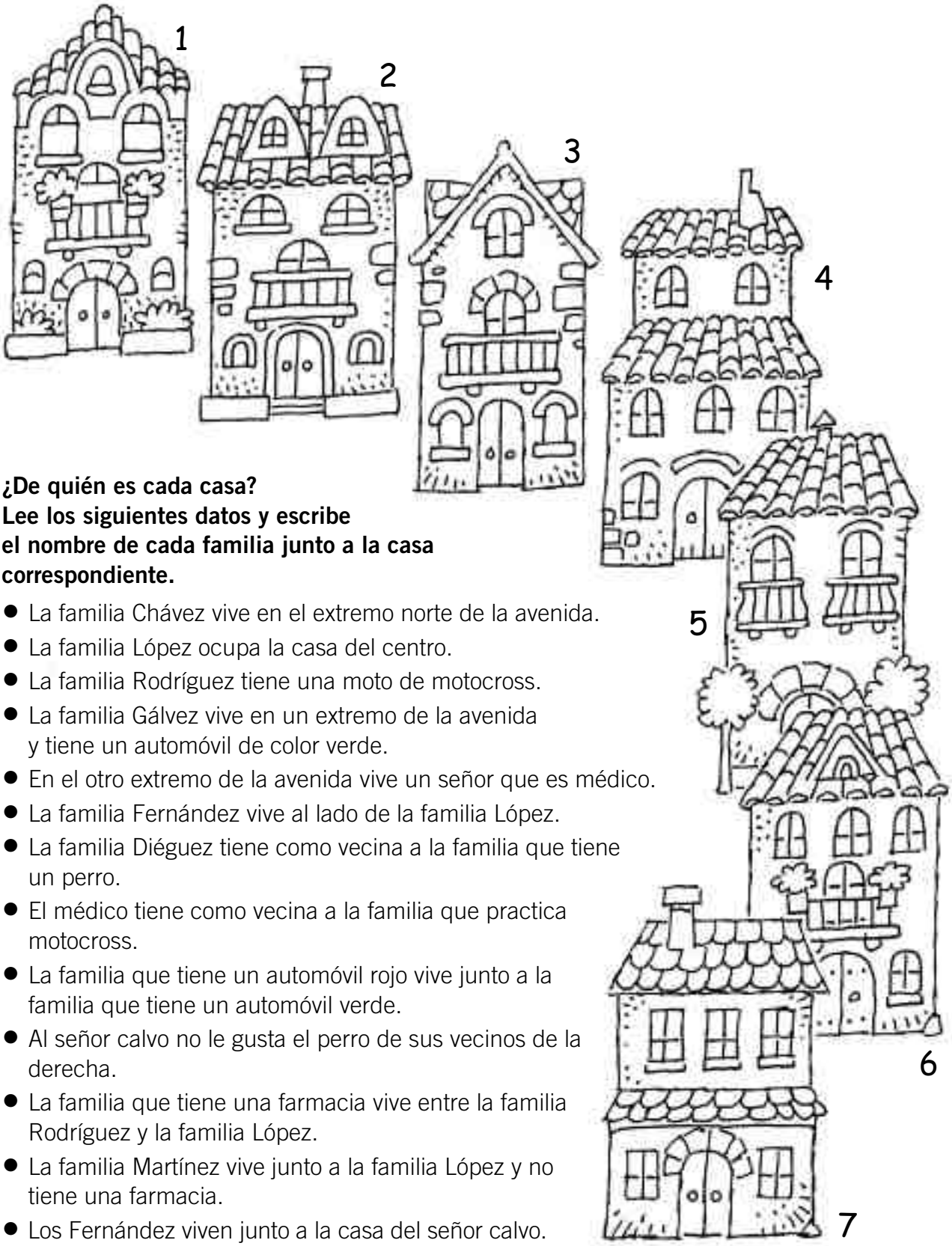

¿De quién es cada casa?
Lee los siguientes datos y escribe el nombre de cada familia junto a la casa correspondiente.

- La familia Chávez vive en el extremo norte de la avenida.
- La familia López ocupa la casa del centro.
- La familia Rodríguez tiene una moto de motocross.
- La familia Gálvez vive en un extremo de la avenida y tiene un automóvil de color verde.
- En el otro extremo de la avenida vive un señor que es médico.
- La familia Fernández vive al lado de la familia López.
- La familia Diéguez tiene como vecina a la familia que tiene un perro.
- El médico tiene como vecina a la familia que practica motocross.
- La familia que tiene un automóvil rojo vive junto a la familia que tiene un automóvil verde.
- Al señor calvo no le gusta el perro de sus vecinos de la derecha.
- La familia que tiene una farmacia vive entre la familia Rodríguez y la familia López.
- La familia Martínez vive junto a la familia López y no tiene una farmacia.
- Los Fernández viven junto a la casa del señor calvo.

Juegos para pensar

Nombre _____ Fecha _____

El dominó

Fíjate en qué orden están colocadas las fichas del dominó y completa las series.

Recuerda que en el dominó los puntos van del 0 al 6.



Las cartas

La baraja francesa está constituida por cuatro tipos de cartas: corazones ♥, tréboles ♣, diamantes ♦ y picas ♠.

Fíjate en las siguientes cartas y tacha la que es falsa.



Los dados

Los dados son cubos que tienen puntos en cada una de sus seis caras. Están dispuestos de forma que los puntos de sus caras opuestas siempre suman 7.

- Como verás, este cubo está incompleto. ¿Cuántos dados faltan para formar este cubo? _____
- ¿Cuánto sumarán los puntos de todos los dados que lo forman? _____

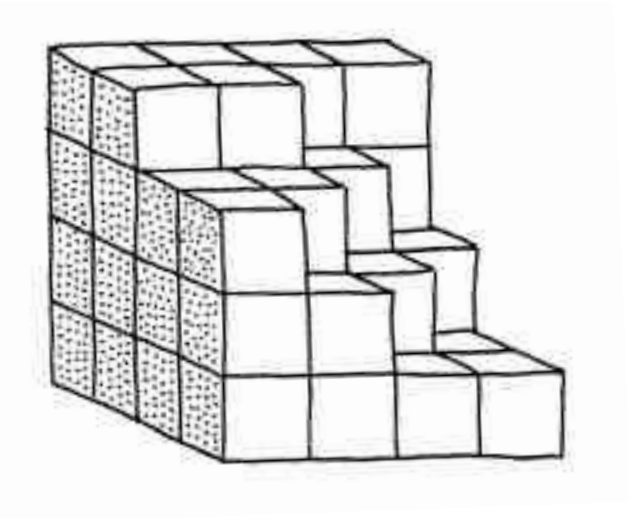

Ficha
29

Las bolas de oro

Nombre _____ Fecha _____

Un rey tenía nueve bolas doradas, todas del mismo tamaño. Creía que todas eran de oro, pero no era así: una era de plomo.

Cuando se dio cuenta, el rey encargó a su tesorero que encontrara la bola falsa.

Para hacerlo, el tesorero le pidió a un vecino que le prestara su balanza.

Éste le advirtió que la balanza no tenía pesas y que sólo la podría utilizar dos veces.

El tesorero aceptó las condiciones de su vecino, ya que sólo necesitaba dos pesadas para encontrar la bola de plomo.

Piensa en cómo pudo hacerlo y explícalo.

Las damas del ajedrez

Nombre _____ Fecha _____



¿Has jugado alguna vez a las ocho damas?

Como sabes, en el juego del ajedrez, la dama es la pieza más importante, ya que se puede mover en todas direcciones (horizontal, vertical o diagonal) sin límite de casillas.

El juego que te proponemos consiste en colocar sobre el tablero de ajedrez ocho damas de modo que no se puedan atacar entre sí.

Ya hemos colocado las tres primeras damas, ahora te toca a ti situar las otras cinco que faltan.

Si te es más fácil, puedes utilizar un tablero de ajedrez real con ocho peones que hagan las veces de damas.

Aventura en África

Nombre _____ Fecha _____

El explorador, que era muy listo, enseguida supo de qué tribu era cada uno. A lo mejor también lo has descubierto tú.

¿De qué tribu era el guía? ¿Y el hombre de la orilla? Razona tu respuesta.

Una travesía problemática

Nombre _____ Fecha _____



Había una vez un titiritero que recorría el país llevando consigo todo lo que poseía: un lobo, una cabra y una col.

En cierta ocasión, llegó a un río y se encontró con que la única manera de atravesarlo era utilizando una barca en la que sólo cabían él y el lobo o él y la cabra o él y la col.

Desgraciadamente, no podía dejar al lobo con la cabra, porque el lobo se comería a la cabra. Tampoco podía dejar a la cabra con la col, porque la cabra se comería la col.

Cuando ya estaba convencido de que era imposible atravesar el río sin perder alguna de sus pertenencias, encontró la solución y llegó a la otra orilla sin perder nada.

¿Cómo pudo hacerlo? Explica.

Ficha
33

Feria de ganado

Nombre _____ Fecha _____



Estos ganaderos han ido a la feria. Cada uno de ellos ha comprado un animal. Lee los siguientes datos y averigua el nombre de cada ganadero.

- Marcos lleva bigote.
- Gregorio no lleva bigote y monta un animal más pequeño que Martín.
- Carlos no tiene un cerdo.
- Felipe es el que se ha gastado más dinero.

Juegos con palabras

Nombre _____ Fecha _____

Peces silábicos

Combina las sílabas de cada uno de estos peces y forma seis verbos.

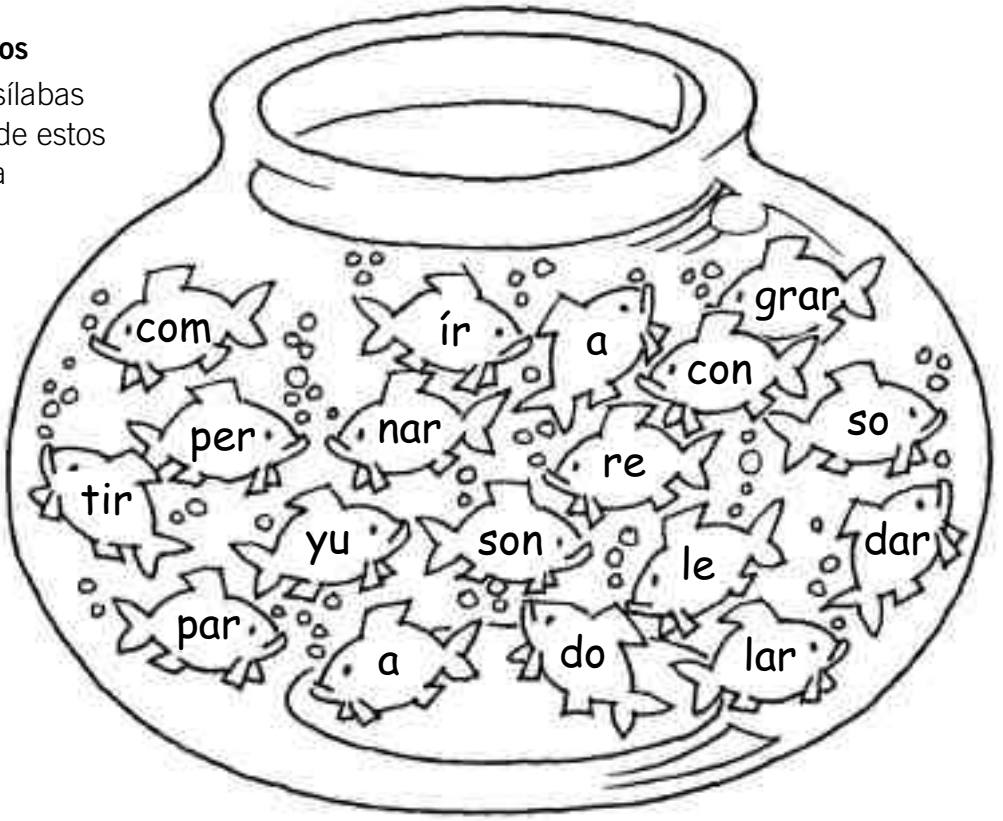

T	U	S	O	S
N	E	L	U	S
A	R	M	I	L
P	A	T	R	O
R	O	P	E	T

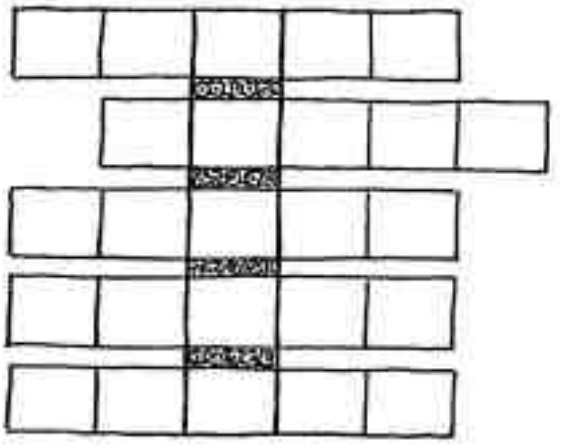

Letras en orden

Ordena las letras y escribe en las casillas de la derecha palabras que tengan sentido.

Si las ordenas bien, en la columna marcada podrás leer una palabra que significa lo contrario de **restar**.

Ficha
35

Gran sopa de nombres

Nombre _____ Fecha _____

L	S	A	O	N	U	R	B	N	O
U	M	S	M	S	L	S	E	N	I
C	E	A	A	P	E	D	R	O	G
A	B	L	R	A	G	A	S	A	R
S	S	B	I	G	N	J	O	S	E
J	I	C	A	M	A	R	C	O	S
J	U	A	N	T	T	R	I	R	A
L	L	L	M	A	R	T	I	N	X
M	A	R	I	N	A	R	I	T	A
N	O	E	T	A	M	L	I	S	A

Encuentra en la sopa de letras 23 nombres propios de hombre y de mujer.

MATERIAL GRATUITO

Descarga nuestros cuadernillos y actividades gratuitos de inicial, preescolar y primaria para imprimir desde nuestra página web.

MATERIAL PARA MAESTROS

www.materialparamaestros.com

SIGUEME EN LAS REDES SOCIALES

Material Para Maestros