CUADERNILLO DE

REFUERZO EN MATEMÁTICAS

SEGUNDO GRADO

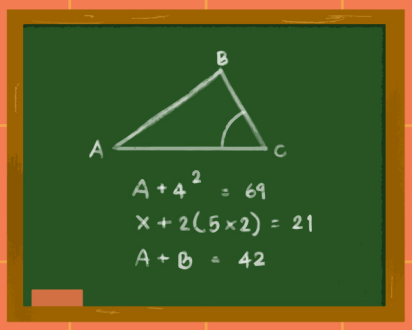

ACTIVIDADES PARA IMPRIMIR

Nombre _____ Fecha _____

1. ¿Cuántos hay? Cuenta y escribe.

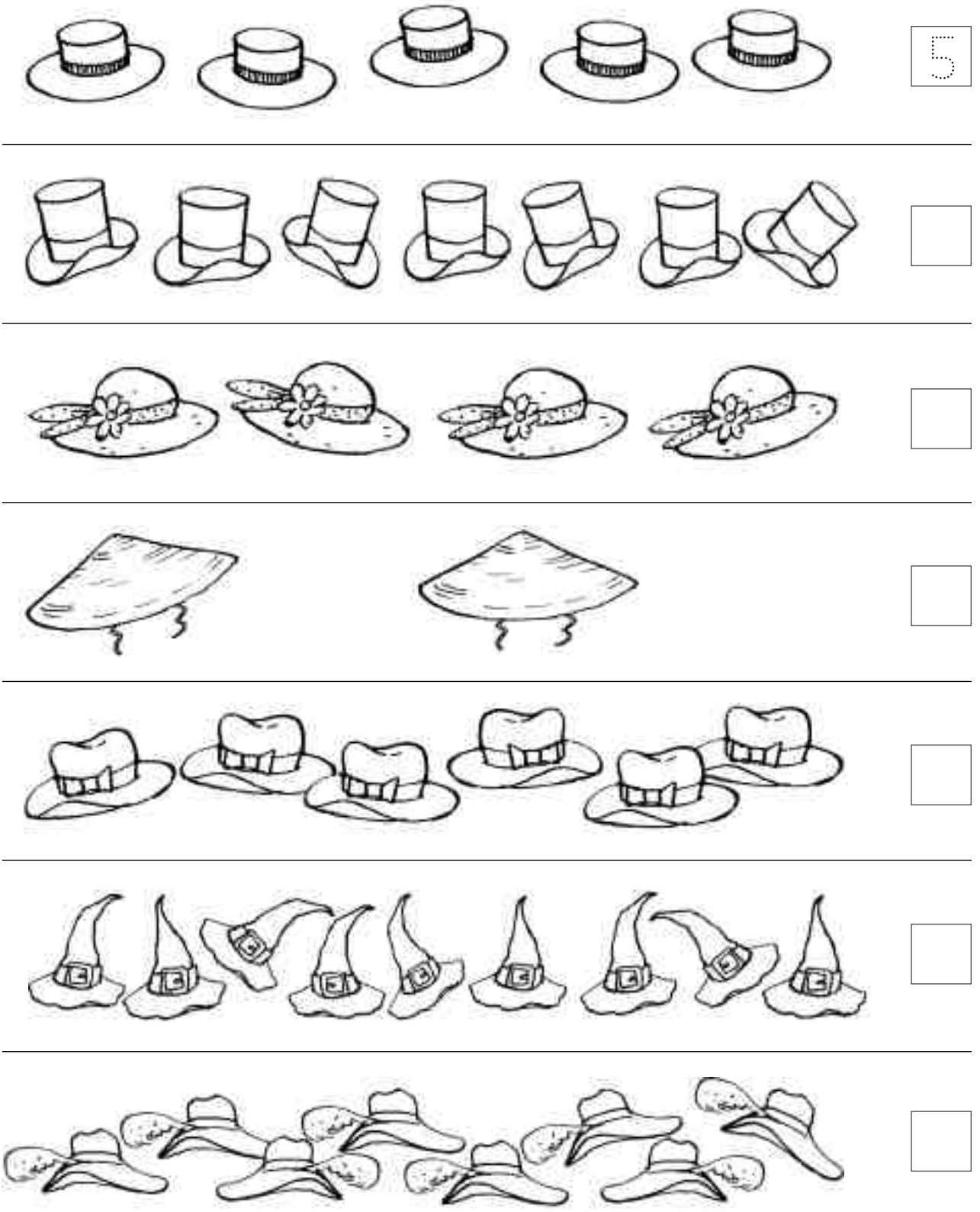

Nombre _____ Fecha _____

1. Cuenta y completa.

¿Cuántas bicicletas hay en total?



☐ y ☐ son ☐

☐ + ☐ = ☐

¿Cuántos patines hay en total?

☐ y ☐ son ☐

☐ + ☐ = ☐

¿Cuántos balones hay en total?



☐ y ☐ son ☐

☐ + ☐ = ☐

Nombre _____ Fecha _____

1. Une cada serie de puntos, desde 0 hasta 9.

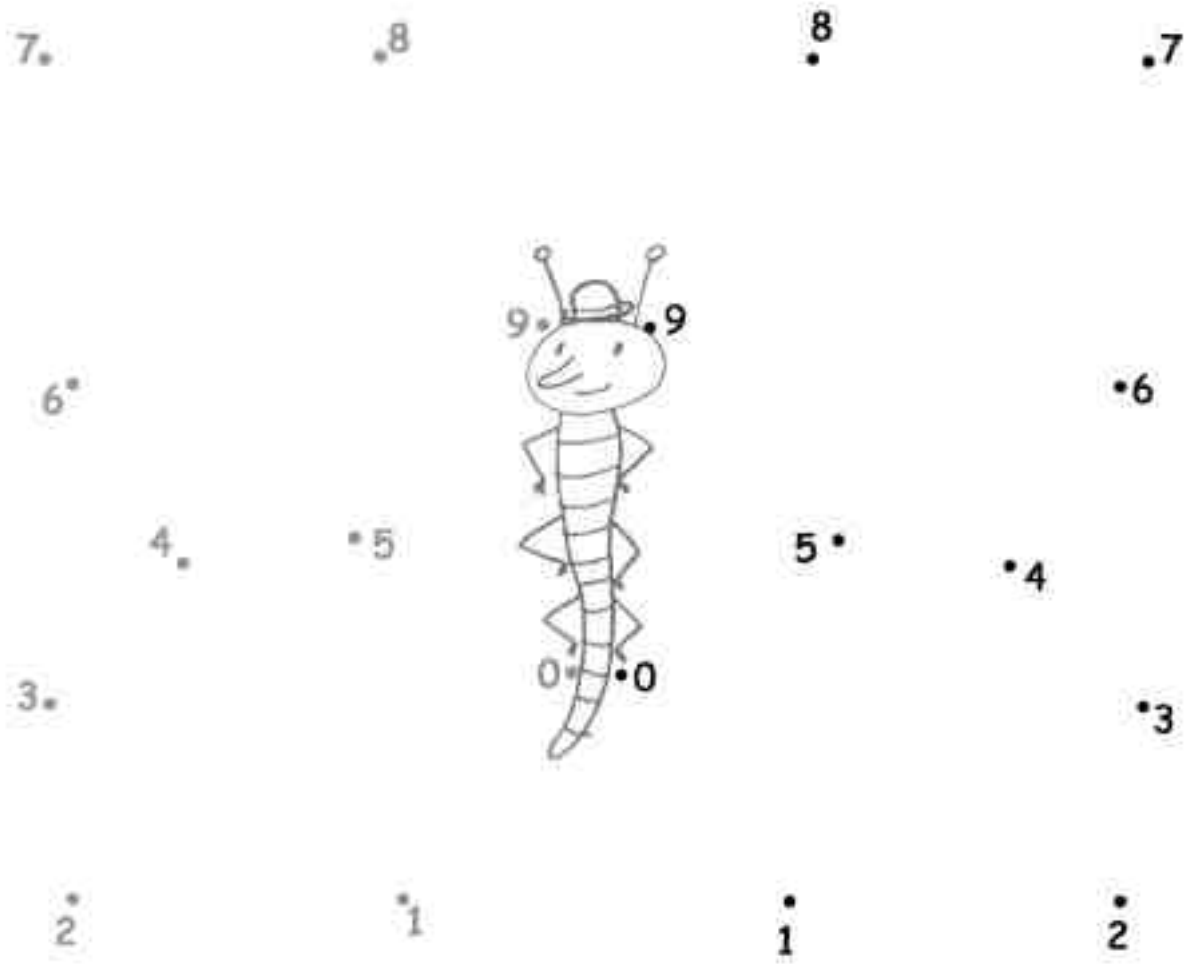

Nombre _____ Fecha _____

1. Dibuja, colorea y completa.

5 + 4

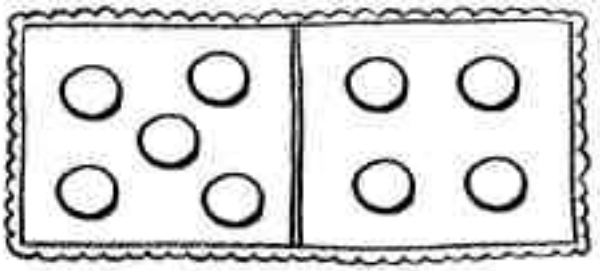

5 + 4 = ☐

4 + 2

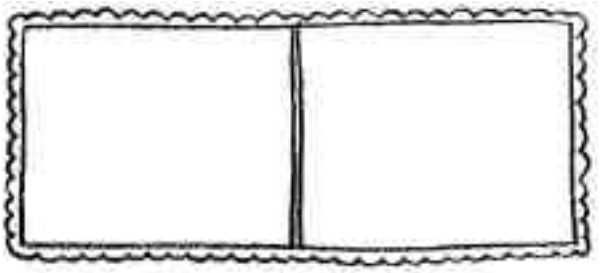

☐ + ☐ = ☐

7 + 1

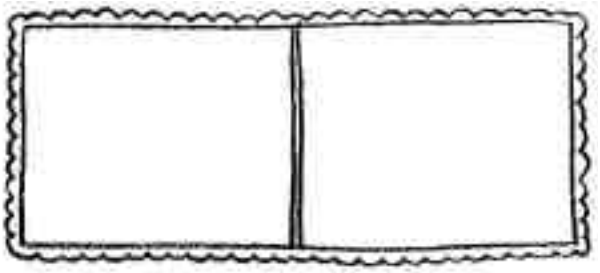

☐ + ☐ = ☐

5 + 2

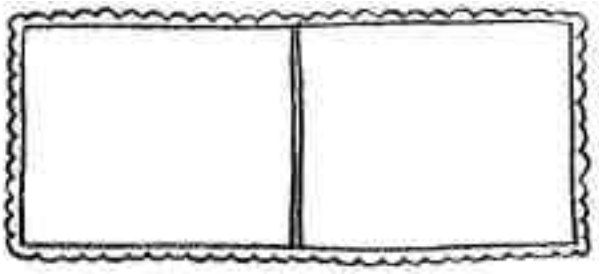

☐ + ☐ = ☐

2 + 3

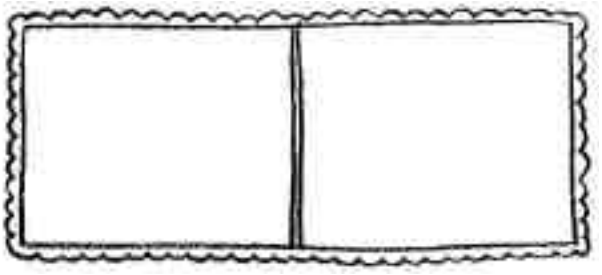

☐ + ☐ = ☐

6 + 3

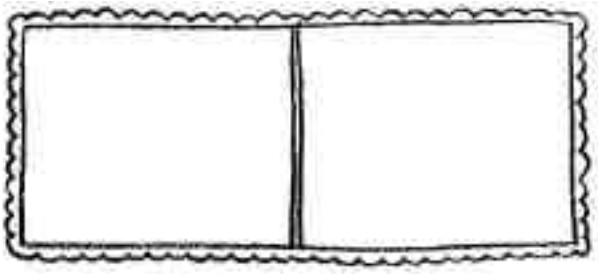

☐ + ☐ = ☐

Nombre _____ Fecha _____

1. ¿Cuántas ardillas hay al final? Completa.



Había ☐ Vienen ☐ Hay ☐

☐ + ☐ = ☐

Al final hay ☐ ardillas.

2. ¿Cuántos sapos hay al final? Completa.



Había ☐ Llegan ☐ Hay ☐

☐ + ☐ = ☐

Al final hay ☐ sapos.

Nombre _____ Fecha _____

1. Rodea el número mayor.

6 4



7 8

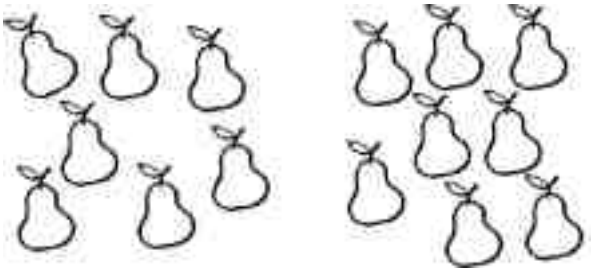

3 5

4 3



2. Rodea el número menor.

9 7

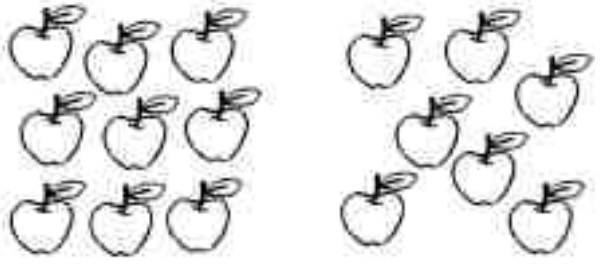

5 4

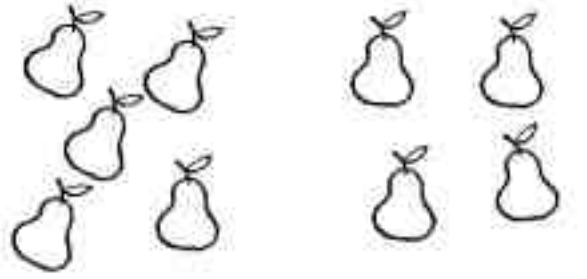

2 6

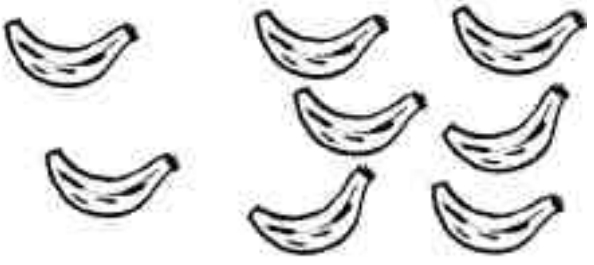

2 3



Nombre _____ Fecha _____

1. ¿Cuántos pájaros quedan? Completa.



Había ☐ Se van ☐ Quedan ☐

☐ – ☐ = ☐ Quedan ☐ pájaros.

2. ¿Cuántos globos quedan? Completa.

Había ☐ Explotan ☐ Quedan ☐

☐ – ☐ = ☐ Quedan ☐ globos.

3. ¿Cuántos bombones quedan? Completa.



Había ☐ Cogen ☐ Quedan ☐

☐ – ☐ = ☐ Quedan ☐ bombones.

Nombre _____ Fecha _____

1. Dibuja, tacha y completa.

8 – 5

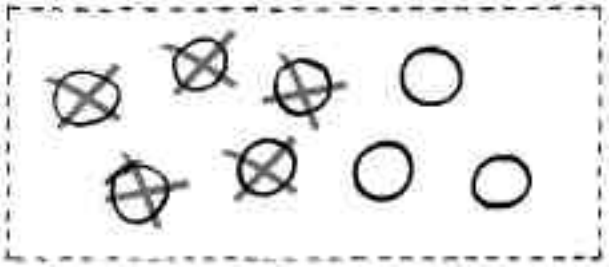

8 – 5 = ☐

9 – 3

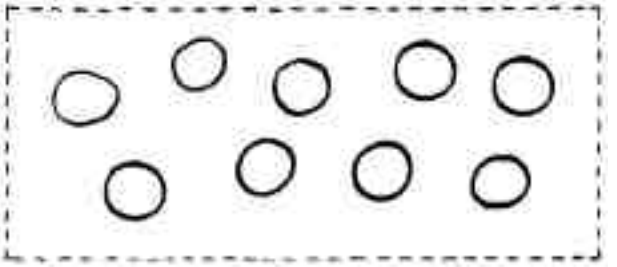

☐ – ☐ = ☐

6 – 4

☐ – ☐ = ☐

4 – 2

☐ – ☐ = ☐

5 – 1

☐ – ☐ = ☐

7 – 2

☐ – ☐ = ☐

Nombre _____ Fecha _____

1. Cuenta y completa.

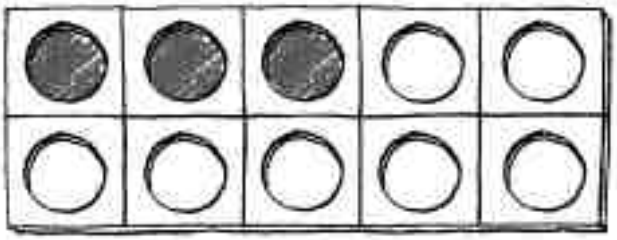

3 y 7 son 10.

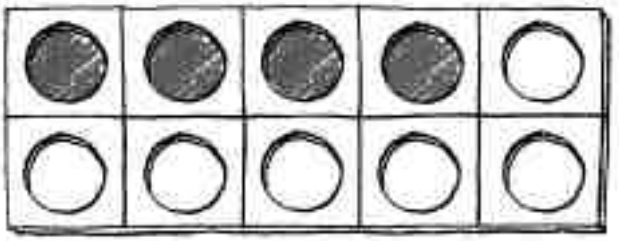

4 y ☐ son 10.

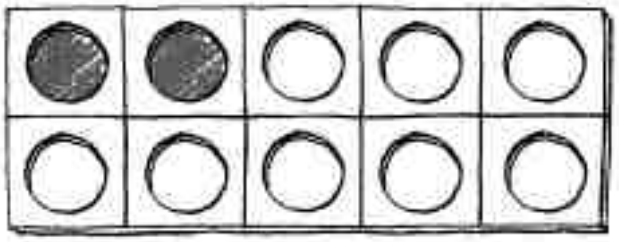

☐ y ☐ son 10.

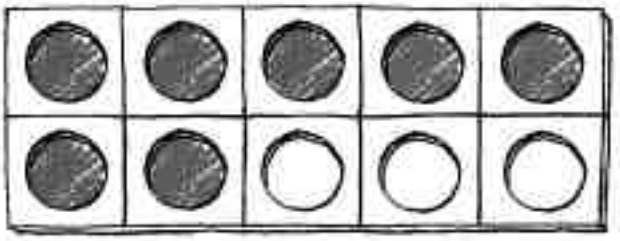

☐ y ☐ son 10.

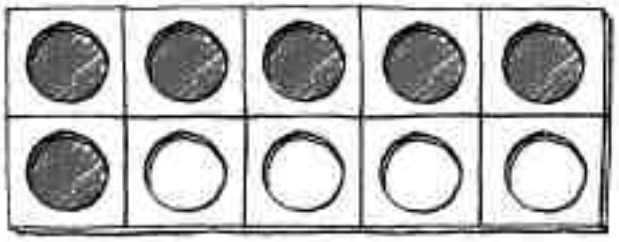

☐ y ☐ son 10.

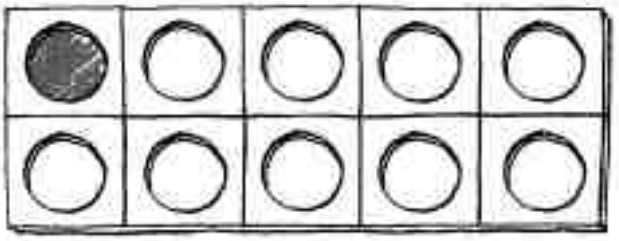

☐ y ☐ son 10.

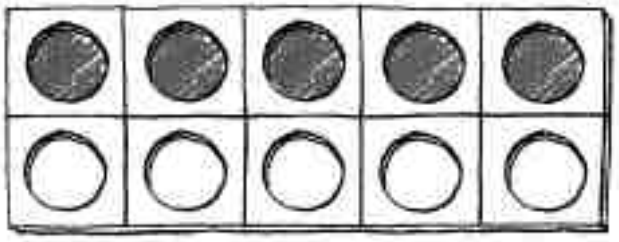

☐ y ☐ son 10.

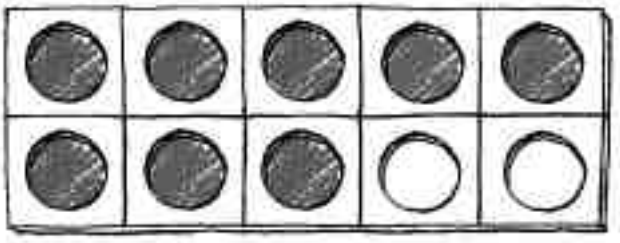

☐ y ☐ son 10.

Nombre _____ Fecha _____

1. Cuenta y completa.

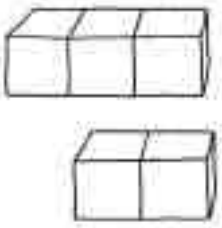

$$\begin{array}{r} 3 \\ +\ 2 \\ \hline 5 \end{array}$$

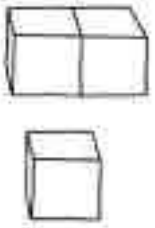

$$\begin{array}{r} 2 \\ +\ \square \\ \hline \square \end{array}$$

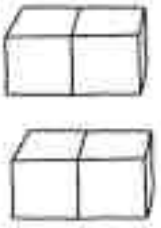

$$\begin{array}{r} \square \\ +\ \square \\ \hline \square \end{array}$$

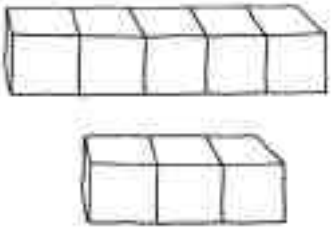

$$\begin{array}{r} \square \\ +\ \square \\ \hline \square \end{array}$$

2. Tacha y completa las restas.

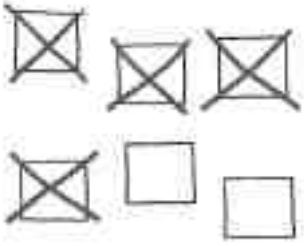

$$\begin{array}{r} 6 \\ -\ 4 \\ \hline 2 \end{array}$$



$$\begin{array}{r} 8 \\ -\ 3 \\ \hline \square \end{array}$$

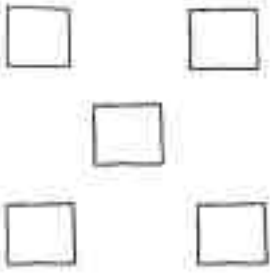

$$\begin{array}{r} 5 \\ -\ 2 \\ \hline \square \end{array}$$



$$\begin{array}{r} 7 \\ -\ 5 \\ \hline \square \end{array}$$

Nombre _____ Fecha _____

1. Cuenta y completa.

1 decena y 6 unidades

10 + 6 = ☐

D	U

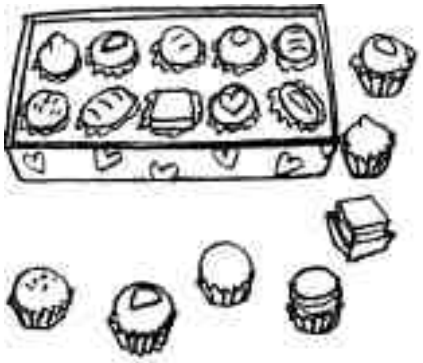

☐ decena y ☐ unidades

☐ + ☐ = ☐

D	U

☐ decena y ☐ unidades

☐ + ☐ = ☐

D	U

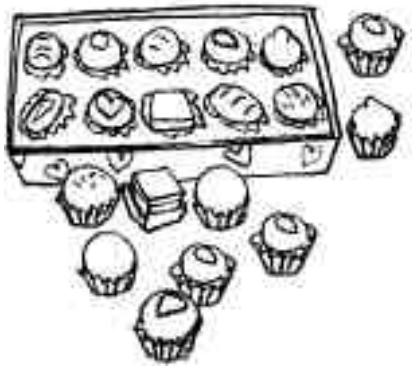

☐ decena y ☐ unidades

☐ + ☐ = ☐

D	U

Nombre _____ Fecha _____

1. Escribe los números que faltan.

0		2		4		6		8	
10	11		13		15		17		19

2. Escribe el número anterior.

☐ ◀ 8

☐ ◀ 11

☐ ◀ 13

☐ ◀ 7

☐ ◀ 15

☐ ◀ 2

☐ ◀ 17

☐ ◀ 4

☐ ◀ 10

☐ ◀ 6

3. Escribe el número posterior.

11 ▶ ☐

4 ▶ ☐

17 ▶ ☐

9 ▶ ☐

15 ▶ ☐

6 ▶ ☐

18 ▶ ☐

10 ▶ ☐

13 ▶ ☐

7 ▶ ☐

Nombre _____ Fecha _____

1. Observa la serie, cuenta y completa.

8 + 7 = ☐

0	1	2	3	4	5	6	7	8	9	10	11	12	13	14	15	16	17	18	19

8 ▶ 9 10 11 12 13 14 15

---

9 + 4 = ☐

0	1	2	3	4	5	6	7	8	9	10	11	12	13	14	15	16	17	18	19

9 ▶ _____ .

---

8 + 1 + 6 = ☐

0	1	2	3	4	5	6	7	8	9	10	11	12	13	14	15	16	17	18	19

8 ▶ _____ .

---

4 + 3 + 5 = ☐

0	1	2	3	4	5	6	7	8	9	10	11	12	13	14	15	16	17	18	19

4 ▶ _____ .

Nombre _____ Fecha _____

1. Completa y suma.

$$\boxed{4} + \boxed{2} + \boxed{3} = \boxed{9}$$

$$\begin{array}{r} \boxed{4} \\ \boxed{2} \\ + \quad \boxed{3} \\ \hline \boxed{9} \end{array}$$

$$\boxed{3} + \boxed{} + \boxed{} = \boxed{}$$

$$\begin{array}{r} \boxed{3} \\ \boxed{} \\ + \quad \boxed{} \\ \hline \boxed{} \end{array}$$

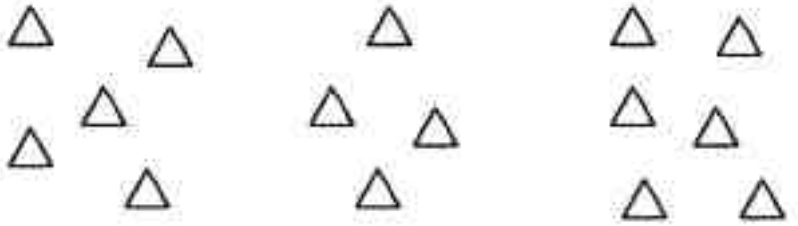

$$\boxed{} + \boxed{} + \boxed{} = \boxed{}$$

$$\begin{array}{r} \boxed{} \\ \boxed{} \\ + \quad \boxed{} \\ \hline \boxed{} \end{array}$$

Nombre _____ Fecha _____

1. ¿Cuántos huevos faltan en la caja? Cuenta y completa.

10 – 6

Cuento desde 6 hasta ☐.



0	1	2	3	4	5	6	7	8	9	10	11	12

6 ▶ ☐ ☐ ☐ ☐

☐ – ☐ = ☐

Faltan ☐ huevos.

2. ¿Cuántas magdalenas faltan? Cuenta y completa.

12 – 7

Cuento desde ☐ hasta ☐.

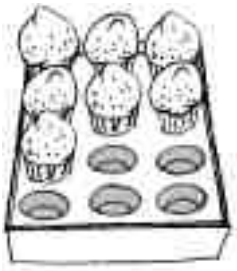

0	1	2	3	4	5	6	7	8	9	10	11	12

☐ ▶ _____.

☐ – ☐ = ☐

Faltan ☐ magdalenas.

3. ¿Cuántas botellas faltan? Cuenta y completa.

8 – 5

Cuento desde ☐ hasta ☐.

0	1	2	3	4	5	6	7	8	9	10	11	12

☐ ▶ _____.

☐ – ☐ = ☐

Faltan ☐ botellas.

Nombre _____ Fecha _____

1. ¿Cuántas hay? Cuenta y completa.

☐ decenas y ☐ unidades

☐ + ☐ = ☐ ▶

D	U



☐ decenas y ☐ unidades

☐ + ☐ = ☐ ▶

D	U



☐ decenas y ☐ unidades

☐ + ☐ = ☐ ▶

D	U



☐ decenas y ☐ unidades

☐ + ☐ = ☐ ▶

D	U

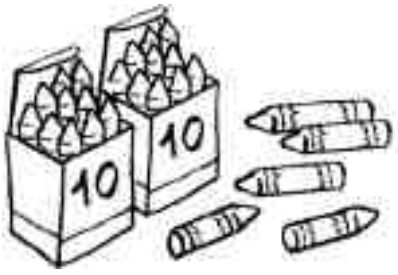

☐ decenas y ☐ unidades

☐ + ☐ = ☐ ▶

D	U

Nombre _____ Fecha _____

1. Cuenta y completa.

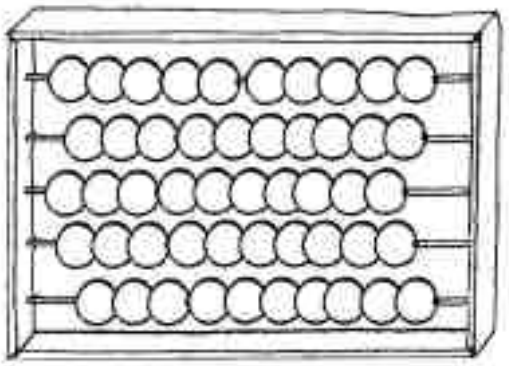

D	U
5	0

▶ 50

5 decenas = ☐ unidades

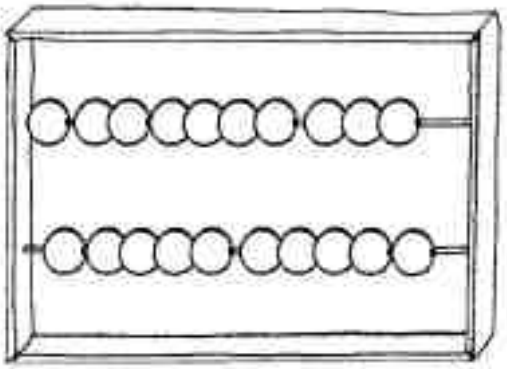

D	U

▶ ☐

☐ decenas = ☐ unidades

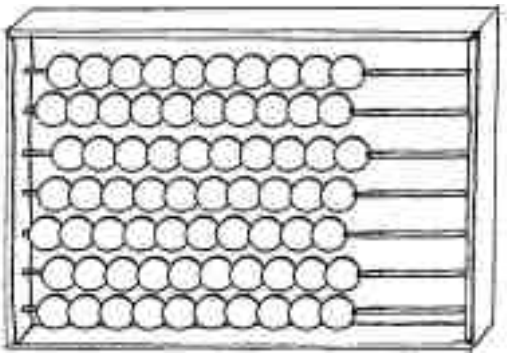

D	U

▶ ☐

☐ decenas = ☐ unidades

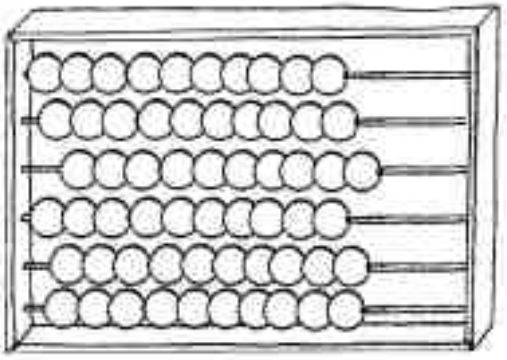

D	U

▶ ☐

☐ decenas = ☐ unidades

Nombre _____ Fecha _____

1. Lee cada problema y resuelve.

Ana necesita 8 cromos para acabar su colección. Tiene ya 5. ¿Cuántos cromos le faltan?

Necesita ▼ ☐ – Tiene ▼ ☐ = Le faltan ▼ ☐

Le faltan ☐ cromos.

Luis tenía 4 manzanas.
Gastó 2 para hacer un pastel.
¿Cuántas manzanas le sobran?

Tenía ▼ ☐ – Gastó ▼ ☐ = Sobran ▼ ☐

Le sobran ☐ manzanas.

Sole tenía 9 barras para vender.
Ha vendido 4.
¿Cuántas barras le sobran?

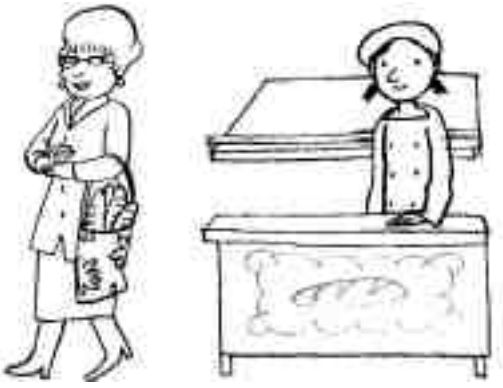

Tenía ▼ ☐ – Ha vendido ▼ ☐ = Sobran ▼ ☐

Le sobran ☐ barras.

Nombre _____ Fecha _____

1. Cuenta y completa.

Había 4 bandejas, con 10 vasos cada una.
Manolo ha traído 2 bandejas más.
¿Cuántas bandejas hay ahora?
¿Cuántos vasos hay ahora?

Bandejas ▶ ☐ + ☐ = ☐

Hay ☐ bandejas.

Vasos ▶ ☐ + ☐ = ☐

Hay ☐ vasos.

Inma tenía 6 collares, con 10 perlas cada uno.
Ha vendido 3 collares.
¿Cuántos collares le quedan?
¿Cuántas perlas quedan en total?

Collares ▶ ☐ − ☐ = ☐

Quedan ☐ collares.

Perlas ▶ ☐ − ☐ = ☐

Quedan ☐ perlas.

Nombre _____ Fecha _____

1. Cuenta y completa.

30 + 4 = 34

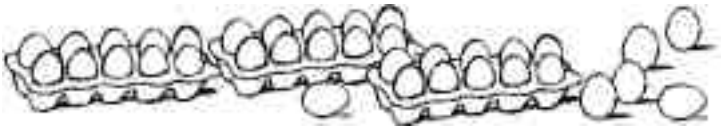

☐ + ☐ = ☐

☐ + ☐ = ☐

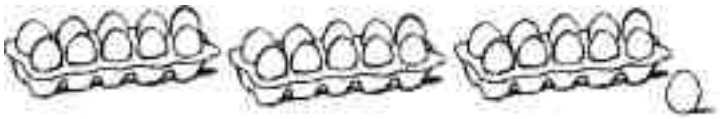

☐ + ☐ = ☐

☐ + ☐ = ☐

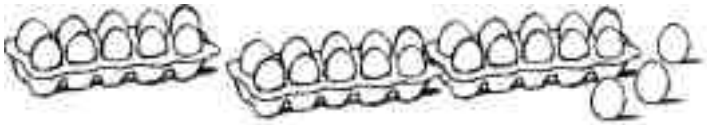

☐ + ☐ = ☐

☐ + ☐ = ☐

☐ + ☐ = ☐

☐ + ☐ = ☐

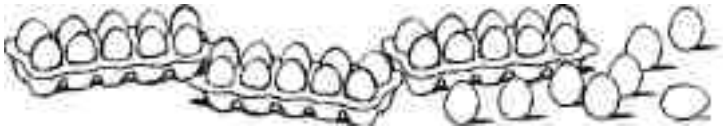

☐ + ☐ = ☐

Nombre _____ Fecha _____

1. Suma.

D	U
1	4
+	2

D	U
2	5
+	3

D	U
2	3
+	6

D	U
	7
+ 3	1

D	U
1	3
+ 1	2

D	U
2	2
+ 1	5

2. Coloca y suma.

16 + 1

D	U
+	

15 + 4

D	U
+	

23 + 3

D	U
+	

11 + 16

D	U
+	

12 + 16

D	U
+	

23 + 14

D	U
+	

Nombre _____ Fecha _____

1. Cuenta y completa.

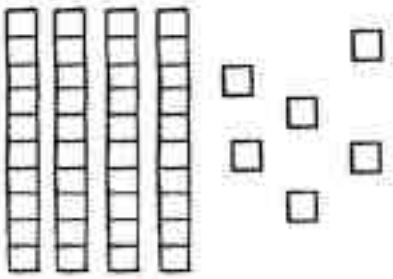

40 + 6 = 46

46 ▶ cuarenta y seis

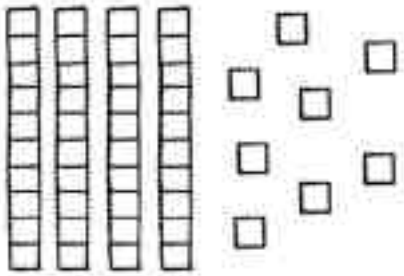

☐ + ☐ = ☐

☐ ▶

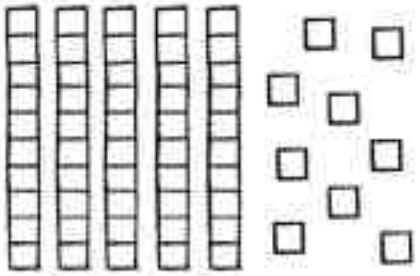

☐ + ☐ = ☐

☐ ▶

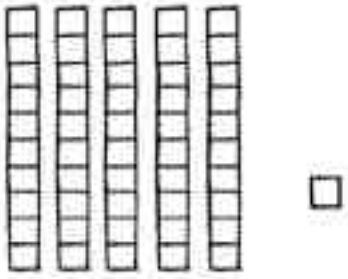

☐ + ☐ = ☐

☐ ▶

Nombre _____ Fecha _____

1. Resta.

D	U
3	7
–	4

D	U
2	4
– 1	2

D	U
4	6
–	3

D	U
3	8
– 2	1

D	U
4	3
– 2	2

D	U
3	5
– 3	4

2. Coloca y resta.

58 – 42

D	U
–	

43 – 21

D	U
–	

44 – 33

D	U
–	

28 – 6

D	U
–	

59 – 40

D	U
–	

47 – 12

D	U
–	

Nombre _____ Fecha _____

1. Completa.

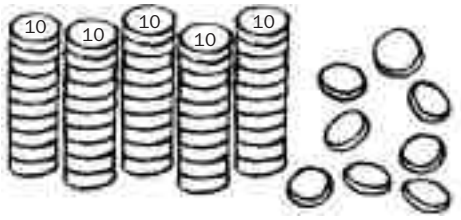

D	U
5	8

50 + 8 = 58

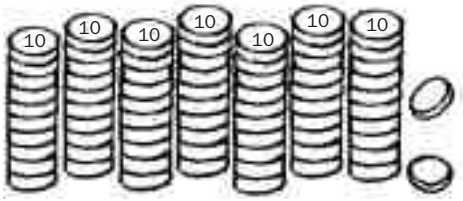

D	U

__ + __ = __

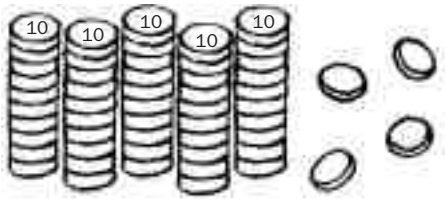

D	U

__ + __ = __



D	U

__ + __ = __

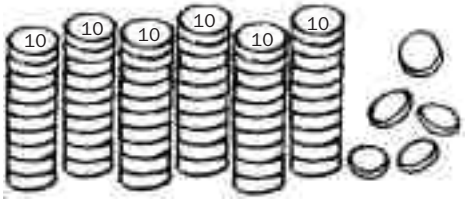

D	U

__ + __ = __

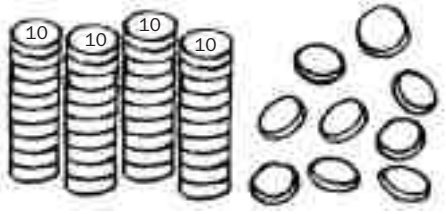

D	U

__ + __ = __

Nombre _____ Fecha _____

1. Lee, completa el dibujo y resuelve.

Lola pescó 6 peces.
Gema pescó 3 peces más que Lola.
¿Cuántos peces pescó Gema?

Peces de Lola ▶

Peces de Gema ▶

☐ + ☐ = ☐ Gema pescó ☐ peces.

José plantó 7 plantas.
Rocío plantó 4 plantas más que José.
¿Cuántas plantas plantó Rocío?

Plantas de José ▶

Plantas de Rocío ▶ ☐

☐ + ☐ = ☐ Rocío plantó ☐ plantas.

Javier tiene 8 libros.
Sara tiene 2 libros menos que Javier.
¿Cuántos libros tiene Sara?

Libros de Javier ▶ ☐

Libros de Sara ▶ ☐

☐ − ☐ = ☐ Sara tiene ☐ libros.

Nombre _____ Fecha _____

1. Completa y suma.

□ [2 3 / 1 4] □ + 1 1 □	□ [1 6 / 3 0] □ + 3 1 □	□ [4 1 / 2 0] □ + 1 5 □
□ [3 2 / 2 3] □ + 1 2 □	□ [4 4 / 3 1] □ + 3 □	□ [3 4 / 2 1] □ + 1 2 □
□ [4 3 / 1 3] □ + 2 0 □	□ [3 0 / 1 4] □ + 1 2 □	□ [1 5 / 2 1] □ + 3 1 □
□ [1 7 / 1 2] □ + 1 0 □	□ [2 4 / 2 3] □ + 1 1 □	□ [2 3 / 2 2] □ + 3 2 □
□ [1 2 / 2 3] □ + 2 1 □	□ [4 2 / 1 2] □ + 2 1 □	□ [3 6 / 1 1] □ + 1 2 □

Nombre _____ Fecha _____

1. Completa y colorea.

7 decenas y 9 unidades

70 + 9 = 79

79 ▶ setenta y nueve

☐ decenas y ☐ unidades

☐ + ☐ = ☐

86 ▶ ☐

☐ decenas y ☐ unidades

☐ + ☐ = ☐

☐ ▶ ☐

Nombre _____ Fecha _____

1. Lee, piensa si tienes que sumar o restar y resuelve.

Ángeles tenía 17 libros.
Silvia le ha regalado 2 más.
¿Cuántos libros tiene Ángeles al final?

Es un problema de ☐

Datos	▶	☐ y ☐
Operación	▶	☐ ○ ☐ = ☐
Solución	▶	Tiene ☐ libros.

Félix tenía 17 galletas.
Le ha regalado 2 a María José.
¿Cuántas galletas tiene Félix al final?

Es un problema de ☐

Datos	▶	☐ y ☐
Operación	▶	☐ ○ ☐ = ☐
Solución	▶	Tiene ☐ galletas.

Nombre _____ Fecha _____

1. Dibuja, compara y completa.

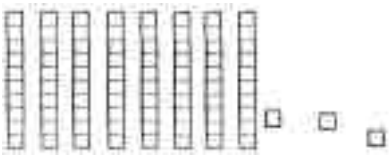

83 31

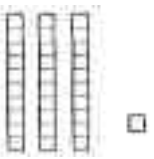

83 es mayor que 31 31 es menor que 83

83 > 31 ☐ < ☐

---

67 38

☐ es mayor que ☐ ☐ es menor que ☐

☐ ○ ☐ ☐ ○ ☐

---

46 27

☐ es mayor que ☐ ☐ es menor que ☐

☐ ○ ☐ ☐ ○ ☐

---

53 63

☐ es mayor que ☐ ☐ es menor que ☐

☐ ○ ☐ ☐ ○ ☐

Nombre _____ Fecha _____

1. ¿Cuánto dinero es? Calcula.

☐ + ☐ + ☐ = ☐

☐ céntimos.

☐ + ☐ + ☐ = ☐

☐ céntimos.

☐ + ☐ + ☐ + ☐ + ☐ + ☐ = ☐

☐ céntimos.

☐ + ☐ + ☐ + ☐ + ☐ + ☐ = ☐

☐ céntimos.

Nombre _____ Fecha _____

1. Rodea, dibuja y completa la suma.

16 + 15

16 ▶

15 ▶

D	U

D	U

①
1 6
+ 1 5
○ ○

23 + 19

23 ▶

19 ▶

D	U

D	U

○
2 3
+ 1 9
○ ○

34 + 17

34 ▶

17 ▶

D	U

D	U

○
3 4
+ 1 7
○ ○

27 + 35

27 ▶

35 ▶

D	U

D	U

○
2 7
+ 3 5
○ ○

Nombre _____ Fecha _____

1. Relaciona.



segundo	cuarto	sexto	octavo	noveno

2. Completa.



▶ noveno

▶ o

▶ y

▶ y

▶ q

▶ c

▶ t

▶ y

▶ p

▶ 5.º

▶ ☐

▶ ☐

▶ ☐

▶ ☐

Nombre _____ Fecha _____

1. Lee, busca los datos y resuelve.



María quiere comprar una muñeca
y un puzle. ¿Cuánto dinero necesita?

Datos ▶ ☐ y ☐

Operación ▶ ☐ ○ ☐ = ☐

Solución ▶ Necesita ☐ euros.

Irene ha comprado unos patines.
Ha entregado 65 €.
¿Cuánto dinero le devuelven?

Datos ▶ ☐ y ☐

Operación ▶ ☐ ○ ☐ = ☐

Solución ▶ Le devuelven ☐ euros.

Nombre _____ Fecha _____

1. ¿Cuánto miden? Observa y escribe.

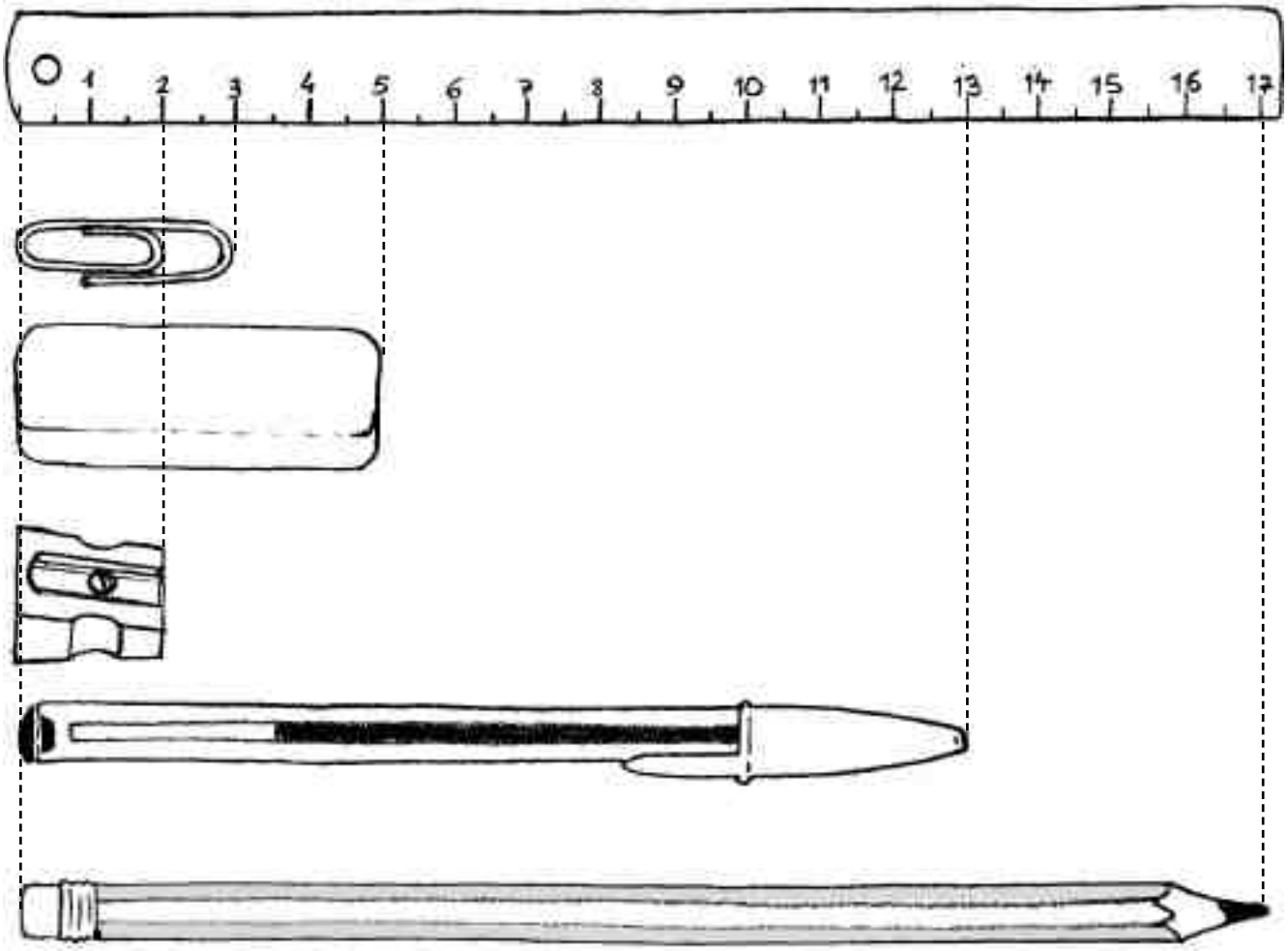

▶ ☐ centímetros.

▶ ☐ centímetros.

▶ ☐ centímetros.

▶ ☐ centímetros.

▶ ☐ centímetros.

Nombre _____ Fecha _____

1. Escribe la hora que marca cada reloj.

Las 9

2. Observa los relojes y completa.

Empieza

Termina



El granjero ha tardado ☐ hora.

Empieza

Termina

La granjera ha tardado ☐ hora.

Nombre _____ Fecha _____

1. Calcula.

4 2 + 1 / 8 2 8	2 1 + 1 / 9 3 1	2 2 + 1 / 6 4 5
2 3 + / 5 2 8	4 2 + 1 / 1 4 5	3 1 + 1 / 2 7 4
3 + 1 / 9 5 3	4 2 + 1 / 4 3 8	4 2 + 1 / 3 2 5
5 2 + / 3 8 6	6 1 + 1 / 2 3 6	5 1 + / 6 3 4

Nombre _____ Fecha _____

1. ¿Con qué monedas pagarías? Relaciona.

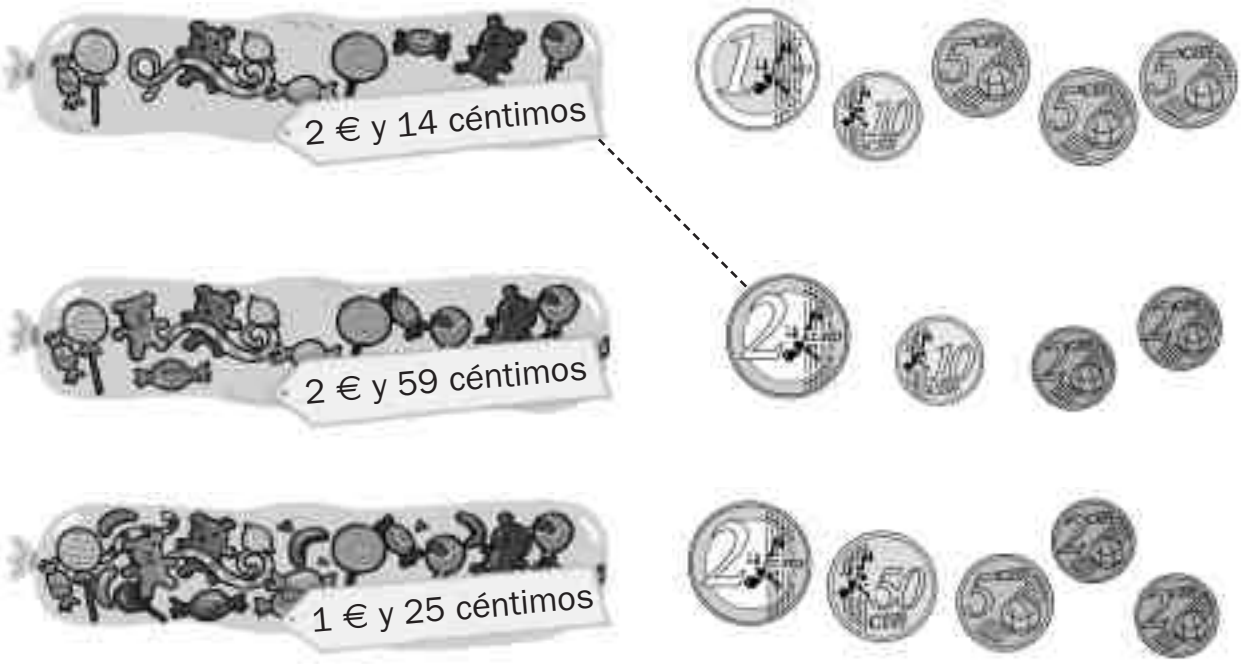

2. ¿Cuánto dinero hay en cada hucha? Escribe.

☐ € y ☐ céntimos

☐ € y ☐ céntimos

Nombre _____ Fecha _____

1. Observa y contesta.

- ¿En qué mano tiene la muñeca la niña?

- ¿En qué mano tiene el cochecito el niño?

- ¿Qué hay a la izquierda de la casa?

- ¿Qué hay delante de la casa?

■ **Ahora, dibuja un perro entre los dos niños.**

Nombre _____ Fecha _____

1. Colorea según la clave.

1 marrón 2 negro 3 verde 4 azul

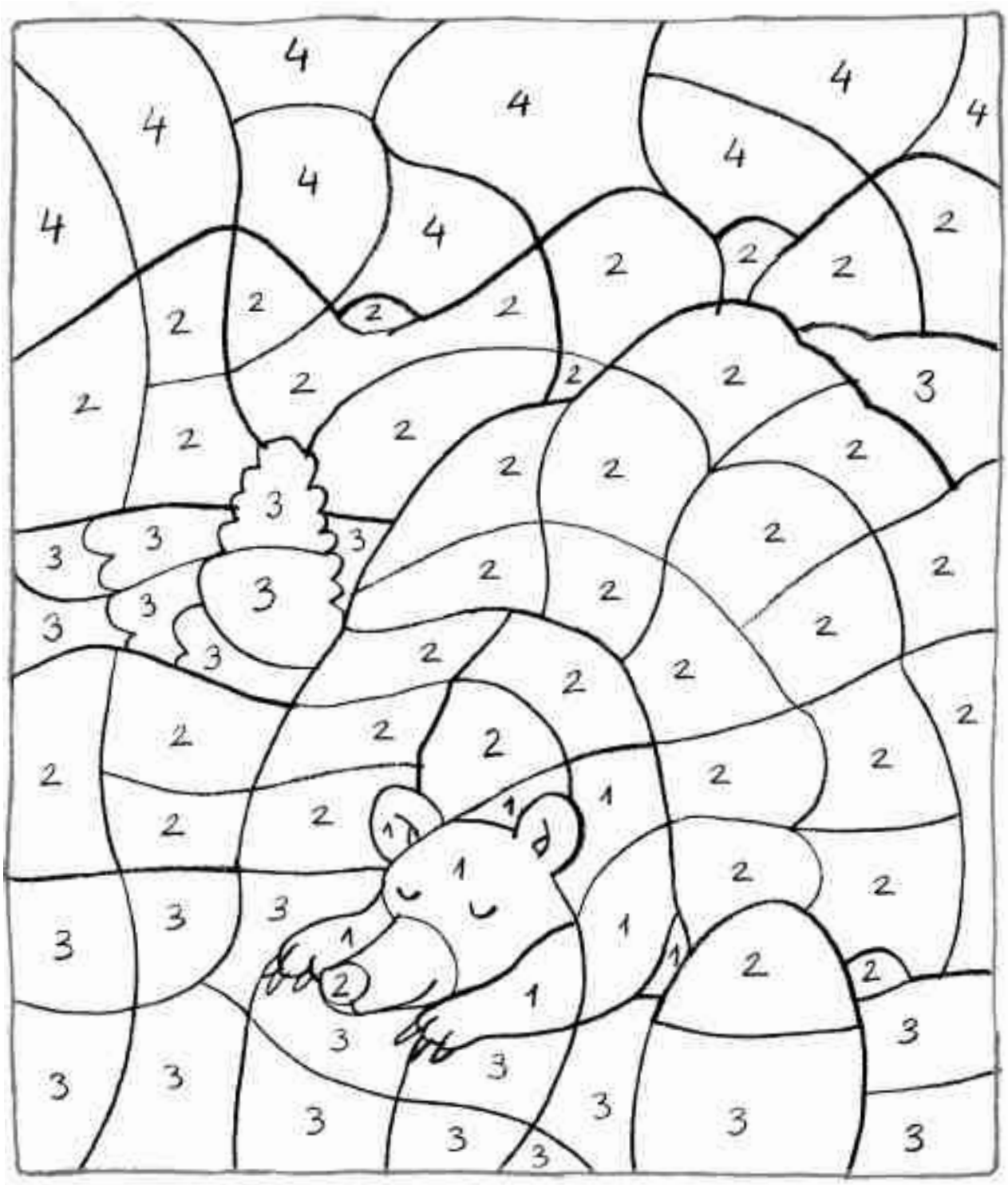

Nombre _____ Fecha _____

1. Suma.

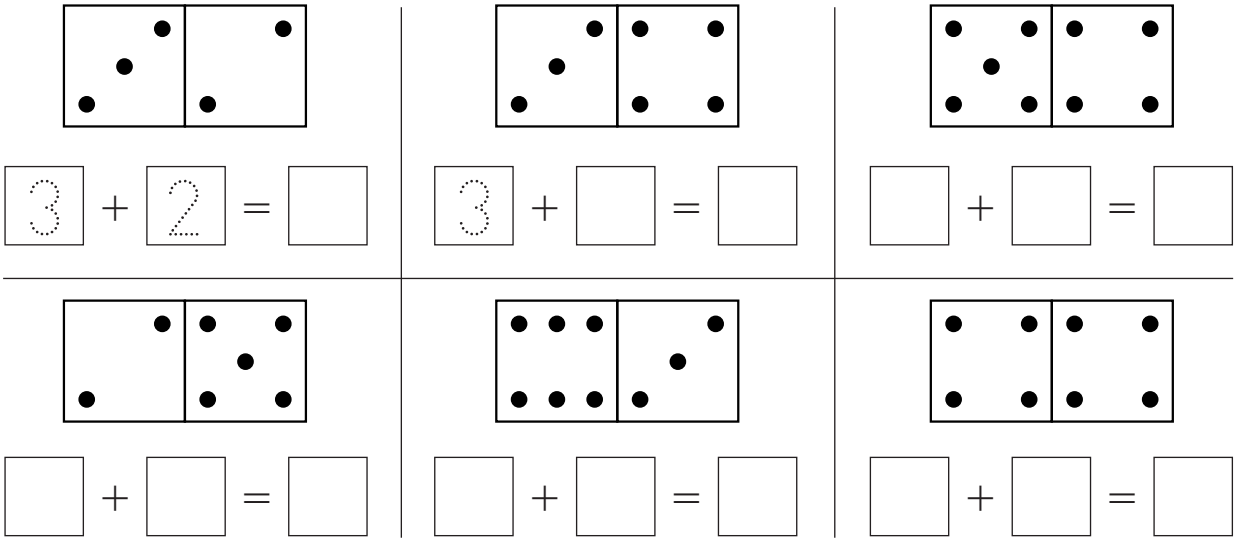

2. Completa las series.

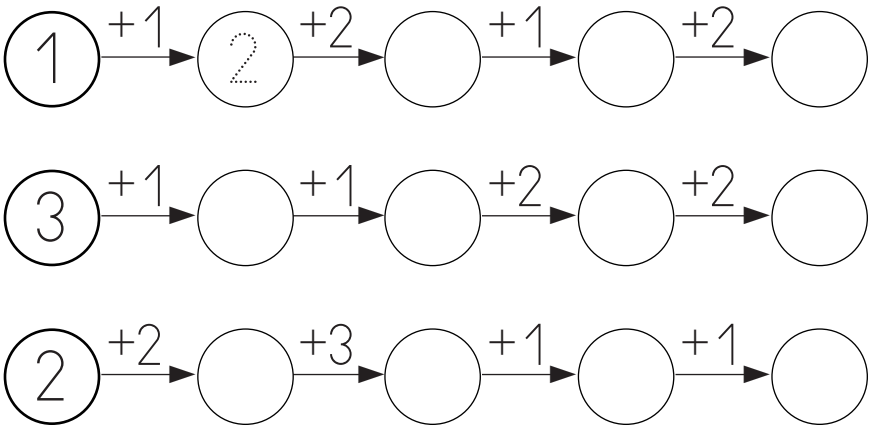

3. Suma y relaciona.

3 + 2	6	5 + 3	9
5 + 1	5	7 + 2	8

Nombre _____ Fecha _____

1. Observa y completa las restas.



☐ – ☐ = ☐



☐ – ☐ = ☐

2. Resuelve las restas. Después, colorea el resultado según la clave.

rojo	▶ 2	3 – 1 = ☐	5 – 2 = ☐	7 – 3 = ☐	4 – 2 = ☐
azul	▶ 3	4 – 1 = ☐	5 – 3 = ☐	6 – 3 = ☐	6 – 2 = ☐
verde	▶ 4	7 – 5 = ☐	8 – 5 = ☐	9 – 5 = ☐	8 – 6 = ☐

Nombre _____ Fecha _____

1. Relaciona y colorea.

- De marrón y blanco → el perro
- De gris → el ratón
- De marrón → el mono
- De naranja → la vaca
- De blanco y negro → el gato

1 decena y 9 unidades

1 decena y 6 unidades

10 + 6

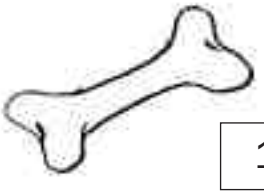

10 + 9

10 + 5

10 + 7

1 decena y 7 unidades

1 decena y 5 unidades

10 + 8

1 decena y 8 unidades

Nombre _____ Fecha _____

1. Une cada barco con su ancla. Después, colorea los barcos según la clave.

11 verde 13 azul 15 amarillo

17 rojo 19 naranja

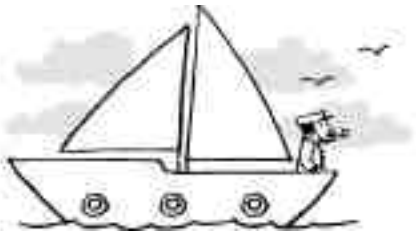

1 decena + 1 unidad

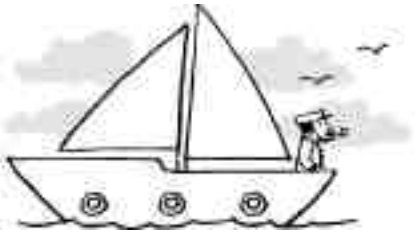

1 decena + 7 unidades

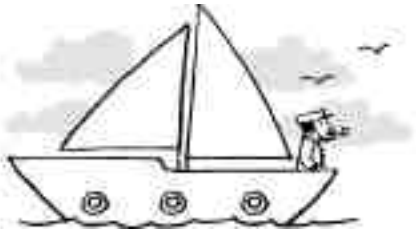

1 decena + 9 unidades

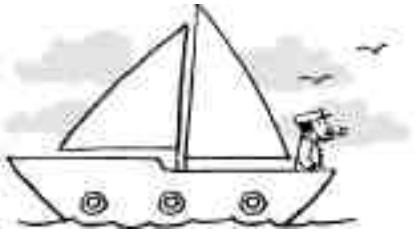

1 decena + 5 unidades

1 decena + 3 unidades



Nombre _____ Fecha _____

1. En cada caso, marca los puntos a los que cada niña llega con su salto. Después, escribe la serie correspondiente.

Yo parto del 0
y salto de 3 en 3.

0	1	2	3	4	5	6	7	8	9	10	11	12	13	14	15	16	17	18	19

Serie de números por los que pasa 0, 3

Yo parto del 18
y salto de 4 en 4.

0	1	2	3	4	5	6	7	8	9	10	11	12	13	14	15	16	17	18	19

Serie de números por los que pasa 18, 14

Yo parto del 0
y salto de 4 en 4.

0	1	2	3	4	5	6	7	8	9	10	11	12	13	14	15	16	17	18	19

Serie de números por los que pasa _____

Nombre _____ Fecha _____

1. Completa los dibujos con líneas poligonales. Después, colorea los dibujos a tu gusto.

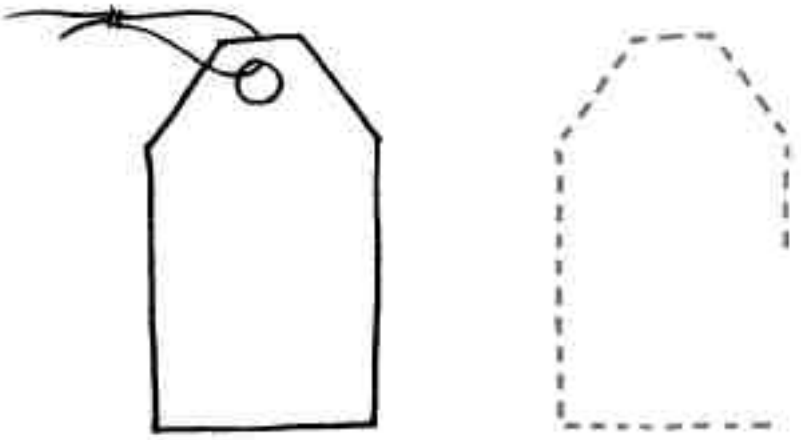



Nombre _____ Fecha _____

1. Relaciona.

veinte ○	○ 30 unidades ○	○ 2 decenas
cincuenta ○	○ 90 unidades ○	○ 5 decenas
treinta ○	○ 20 unidades ○	○ 7 decenas
noventa ○	○ 70 unidades ○	○ 3 decenas
setenta ○	○ 50 unidades ○	○ 9 decenas

2. Completa.

38

D	U

30 + ☐ = ☐

35

D	U

30 + ☐ = ☐

39

D	U

☐ + ☐ = ☐

31

D	U

☐ + ☐ = ☐

Nombre _____ Fecha _____

1. Colorea las zonas cuyo resultado es el número del centro.

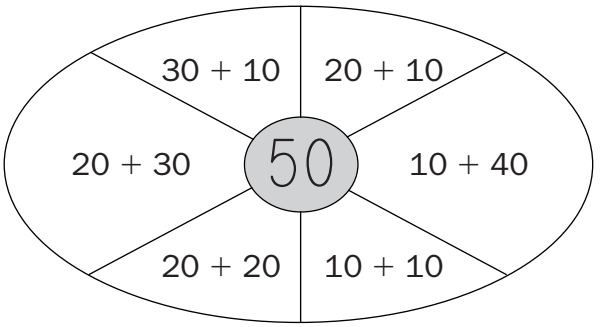

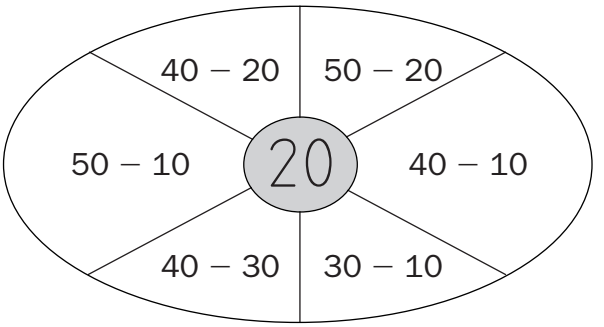

2. Observa los números y calcula.

31 42 13

Suma los dos números menores	Suma el número mayor y el menor	Resta los dos números mayores
☐ ○ ☐	☐ ○ ☐	☐ ○ ☐
☐	☐	☐

3. Lee y resuelve.

En una huerta hay 25 manzanos y 34 perales. ¿Cuántos árboles hay en total en la huerta?

☐ ○ ☐

☐

Hay ☐ árboles.

En una granja hay 48 conejos y 25 vacas. ¿Cuántos conejos más que vacas hay?

☐ ○ ☐

☐

Hay ☐ conejos más.

Nombre _____ Fecha _____

1. Escribe el número y su nombre.

7 decenas y 6 unidades	▶	▶
6 decenas y 4 unidades	▶	▶
5 decenas y 3 unidades	▶	▶

2. Relaciona.

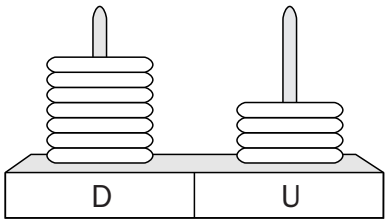

67

74

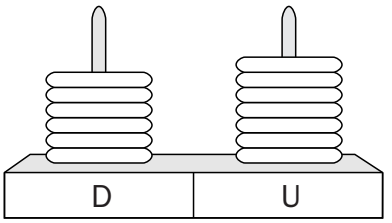

3. Rodea.

rojo ▶ Los números que tienen un 7 en el lugar de las decenas.

azul ▶ Los números que tienen un 9 en el lugar de las unidades.

64 79 59 46 70 68

60 78 57 69 49

4. En cada caso escribe cuatro números.

Mayores que 56 y menores que 66	▶				
Mayores que 68 y menores que 79	▶				

© 2007 Santillana Educación, S. L.

Nombre _____ Fecha _____

1. Recorta las tarjetas de la parte inferior y pégalas en el lugar correspondiente.

diecinueve	2 decenas y 8 unidades	6 decenas y 7 unidades	ochenta y seis
40 + 8	ochenta y nueve	5 decenas	70 + 2
setenta	90 + 5	sesenta	2 decenas y 9 unidades
9 decenas y 9 unidades	8 decenas	treinta y siete	40 + 9

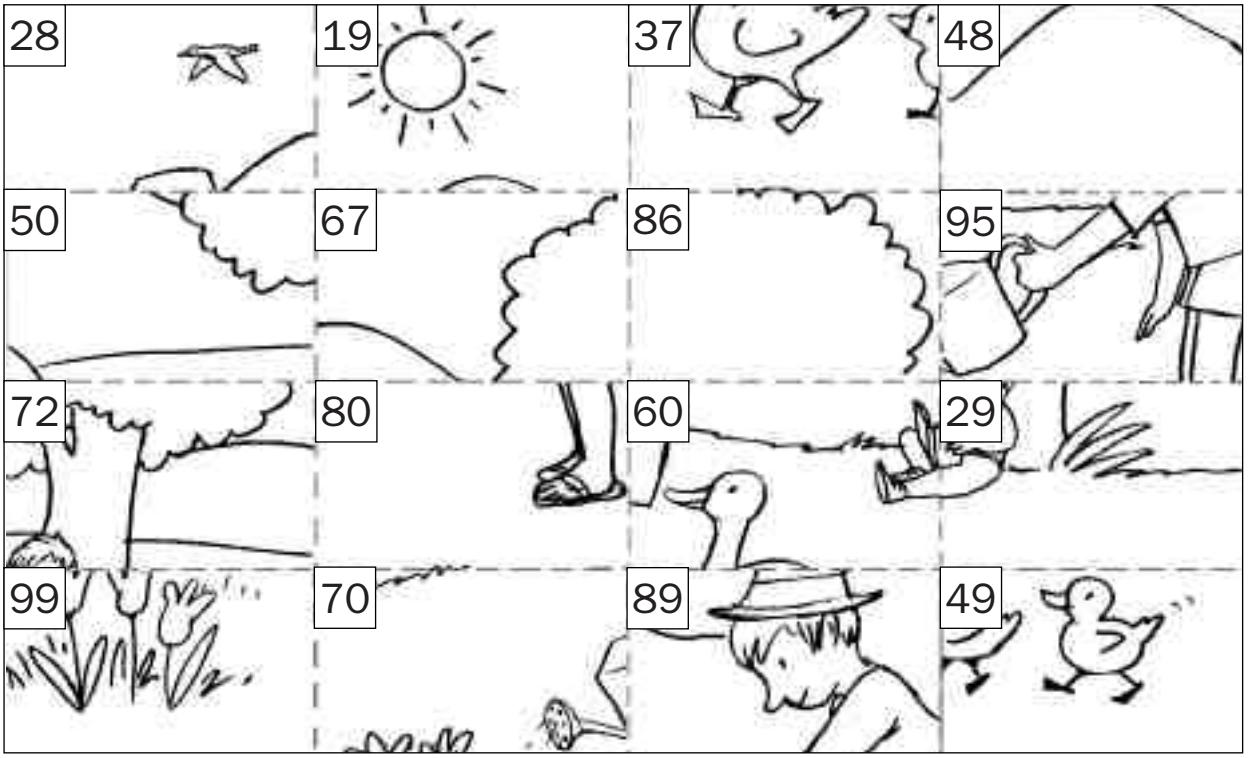

Nombre _____ Fecha _____

1. Calcula el valor de las monedas de cada cofre, colorea según la clave y contesta.

De rojo → 16 céntimos	De azul → 27 céntimos



- ¿Qué valor tienen las monedas del cofre blanco? ____ céntimos.

Nombre _____ Fecha _____

1. Observa y relaciona.



1.°	27	Diecinueve
2.°	19	Treinta y ocho
3.°	38	Veintisiete
4.°	67	Sesenta y siete
5.°	49	Cincuenta y ocho
6.°	58	Cuarenta y nueve
7.°	40	Sesenta
8.°	70	Cuarenta
9.°	60	Setenta

2. Colorea los dorsales.

rojo ▶ El primero, el tercero, el quinto, el sexto y el octavo.

azul ▶ El segundo, el cuarto, el séptimo y el noveno.

Nombre _____ Fecha _____

1. Une los puntos. Después, repasa según la clave.

rojo	▶ Las líneas poligonales cerradas.
azul	▶ Las líneas poligonales abiertas.

Del 37 al 45	Del 54 al 62	Del 60 al 70
		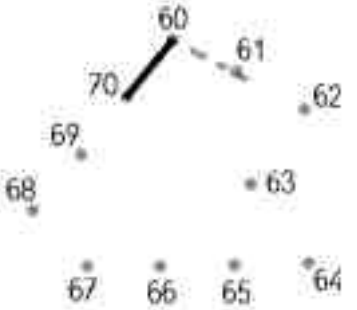

■ **Ahora, pinta de color verde los polígonos.**

2. Dibuja en cada vagón la figura o la línea que se indica.

En el 1.º	▶ Un triángulo.	En el 2.º	▶ Una línea recta.
En el 4.º	▶ Un rectángulo.	En el 3.º	▶ Una línea curva.
En el 6.º	▶ Un círculo.	En el 5.º	▶ Una línea poligonal.



■ **Ahora, rodea los vagones en los que hay dibujado un polígono.**

Nombre _____ Fecha _____

1. Calcula.

20 + 40 = ☐	40 + 30 = ☐
50 + 10 = ☐	50 + 30 = ☐
10 + 40 = ☐	70 + 20 = ☐

2. Coloca los números y suma.

56 + 23	41 + 32 + 6	65 + 17	68 + 24 + 5
☐ ○ ☐ ☐	☐ ☐ ○ ☐ ☐	☐ ○ ☐ ☐	☐ ☐ ○ ☐ ☐

3. Coloca los números y resta.

78 − 34	69 − 5	86 − 41	97 − 6
☐ ○ ☐ ☐	☐ ○ ☐ ☐	☐ ○ ☐ ☐	☐ ○ ☐ ☐