ACTIVIDADES DIVERTIDAS

CUADERNILLO PARA

EMPEZAR BIEN *el día*

3r GRADO

MATERIAL PARA MAESTROS

Ficha
1

Una familia canina

Nombre _____ Fecha _____

Cada perro de la familia Chuchi tiene sus propias manchas.



En cada una de las viñetas siguientes, a uno de los perros le han desaparecido sus manchas. Averigua cuál es y píntale las manchas que le faltan.









Ficha
2

Sombras misteriosas

Nombre _____ Fecha _____

Observa las sombras y une con una línea la que le corresponde al ratoncito.



Observa las piezas y pinta del mismo color las que encajen.



Ficha
3

Herramientas escondidas

Nombre _____ Fecha _____

Ayuda a Raúl y a Ana a encontrar las herramientas que necesitan para arreglar el jardín. Localiza las siguientes herramientas en el dibujo y coloréalas.

azada cubo hoz horca pala pico
rastrillo regadera tijeras

Ficha
4

¡Gran fiesta!

Nombre _____ Fecha _____

Los payasos han traído muchos globos a la fiesta.

Pinta del mismo color los globos que tienen igual dibujo.

Uno de los globos no tiene pareja, ¿cuál es? Rodéalo.



Ficha
5

Un objeto diferente

Nombre _____ Fecha _____

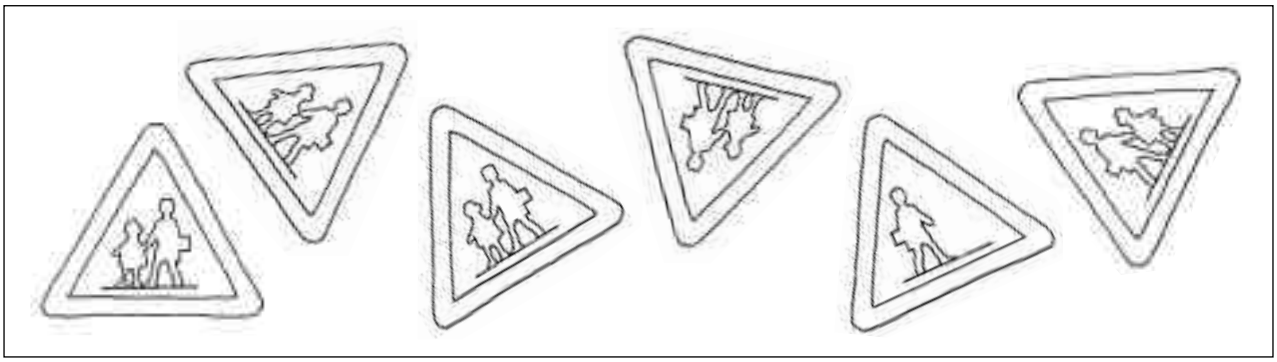

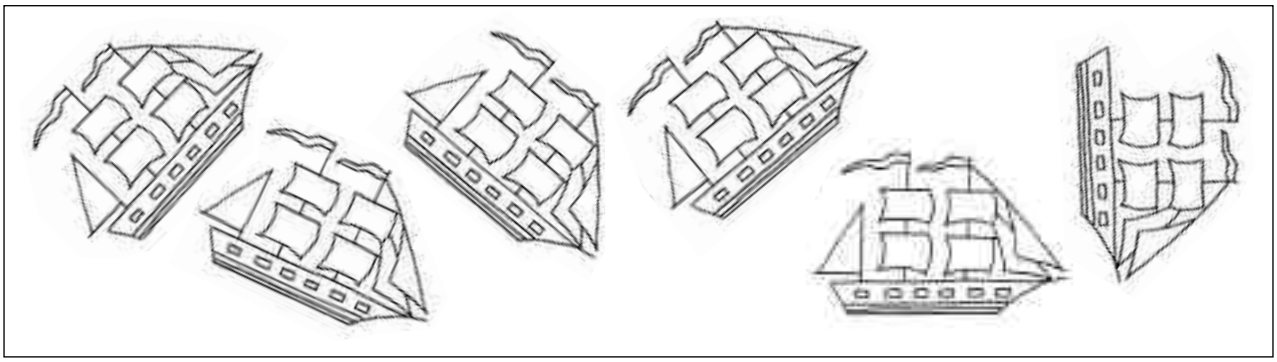

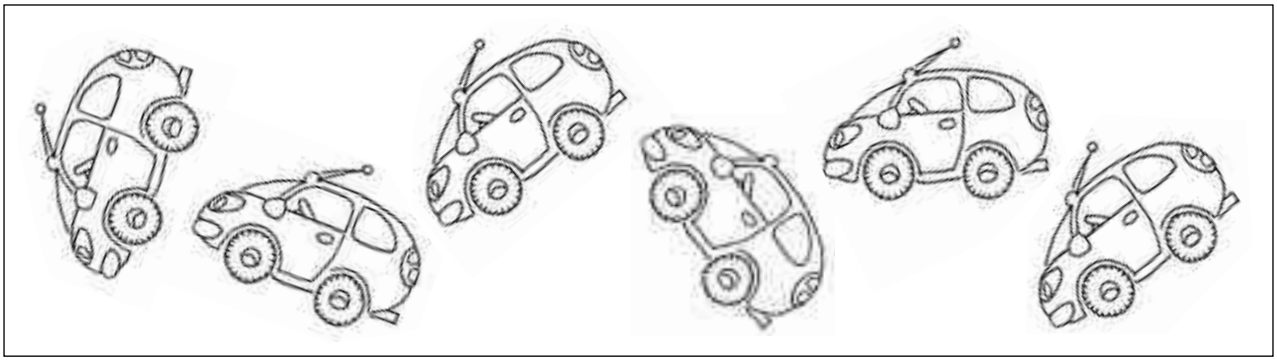

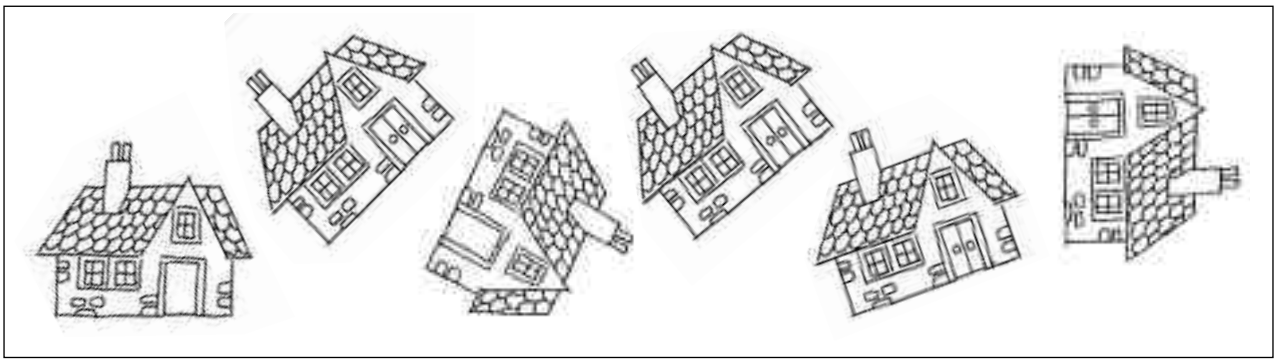

En cada serie hay un dibujo diferente a los demás. Localízalo y dibuja el detalle que le falta.

Ficha
6

Diferencias en el espejo

Nombre _____ Fecha _____





Estos dos dibujos muestran la misma escena, pero las cosas que están a la derecha en uno están en el otro a la izquierda, como si las viéramos reflejadas en un espejo.
Encuentra quince diferencias que hay entre ellos.

Ficha
7

El escaparate de Marta

Nombre _____ Fecha _____

Pedro hizo dos fotografías del escaparate de la tienda de Marta. Al revelarlas, se dio cuenta de que eran diferentes.

Pinta de rojo los objetos de la imagen de arriba que no estén en la de abajo.

Pinta de azul los objetos de la imagen de abajo que no estén en la de arriba.

Ficha
8

Un juego de memoria

Nombre _____ Fecha _____



Dobla la hoja por la línea de puntos y observa atentamente el dibujo durante tres minutos. Después, da la vuelta a la hoja.

- **Completa.**

  – En la biblioteca hay _____ niños y _____ niñas.

  – El reloj marca las _____ horas.

  – El niño que está sentado junto a la ventana está _____.

  – La niña que está leyendo sentada en el suelo tiene junto a ella una _____.

- **Señala con una cruz las cosas que hay en el dibujo.**

☐ un ordenador	☐ un balón	☐ una raqueta
☐ una mochila	☐ un teléfono	☐ un banderín
☐ una cafetera	☐ un reloj	☐ una flecha
☐ un globo	☐ un martillo	☐ una pelota

Ficha
9

La clase de tercero

Nombre _____ Fecha _____



Observa el dibujo durante tres minutos. Después, da la vuelta a la hoja y, durante dos minutos, escribe todo lo que recuerdes. Pasado ese tiempo, vuelve el papel y comprueba tu lista.

Ficha
10

Las apariencias engañan

Nombre _____ Fecha _____

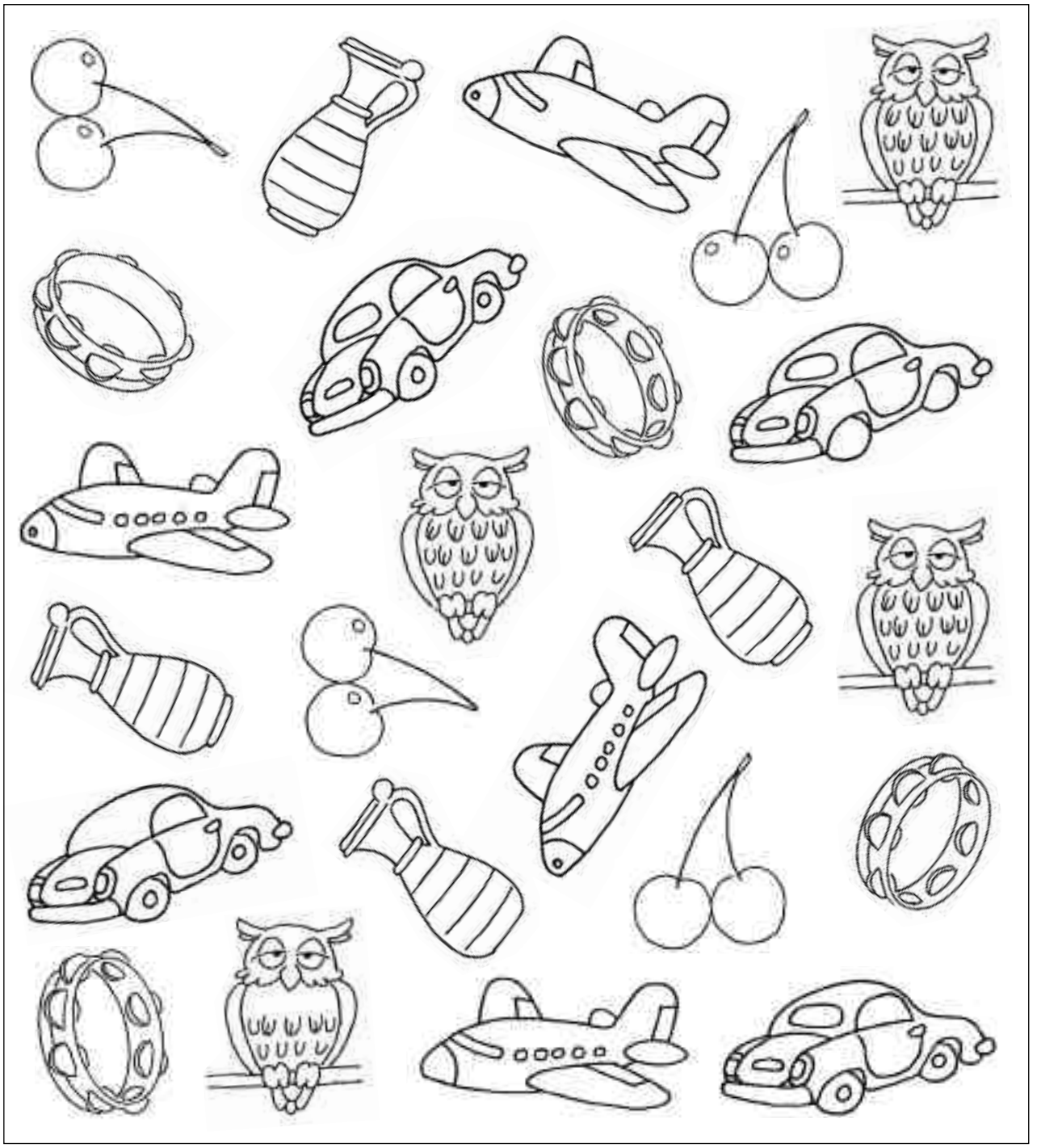

En el siguiente cuadro, la misma figura aparece representada cuatro veces: dos figuras son exactamente iguales y las otras dos se diferencian en algún detalle.

Colorea las figuras que sean iguales. Usa el mismo color para cada pareja.

Despues, dibuja el detalle que le falta a las otras figuras.

Ficha
11

Juguemos a pensar

Nombre _____ Fecha _____



¿Cómo se llaman?
Escribe el nombre de cada niño debajo de su retrato.

- Ramón y Lucas son los más altos.
- Jorge está entre Juan y Lucas.
- Jorge no es el más bajo.

Completa las series. Recuerda que en el dominó los puntos van de 0 a 6.



Rompecabezas para pensar

Nombre _____ Fecha _____

¿Cómo se llaman? Escribe el nombre de cada niña debajo de su retrato.

- Noemí y Lucía llevan una falda con circulitos.
- Marta y Lucía llevan una blusa a cuadros.
- Rosa y Marta usan gafas.
- Noemí está al lado de Marta.



Completa las series. Recuerda que en los dados los puntos van de 1 a 6.

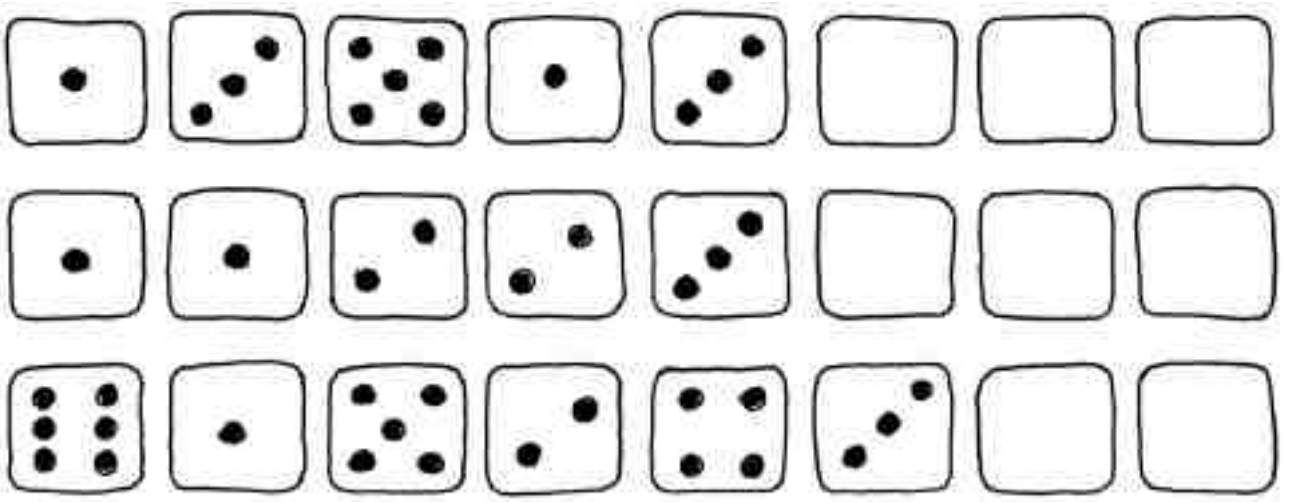

Ficha
13

¡Gran lío en la piscina!

Nombre _____ Fecha _____

El dibujante ha ido a la piscina y ha dibujado esto. ¿No te parece extraño? Colorea todo lo que está fuera de lugar.

Ficha
14

Falta una figura

Nombre _____ Fecha _____

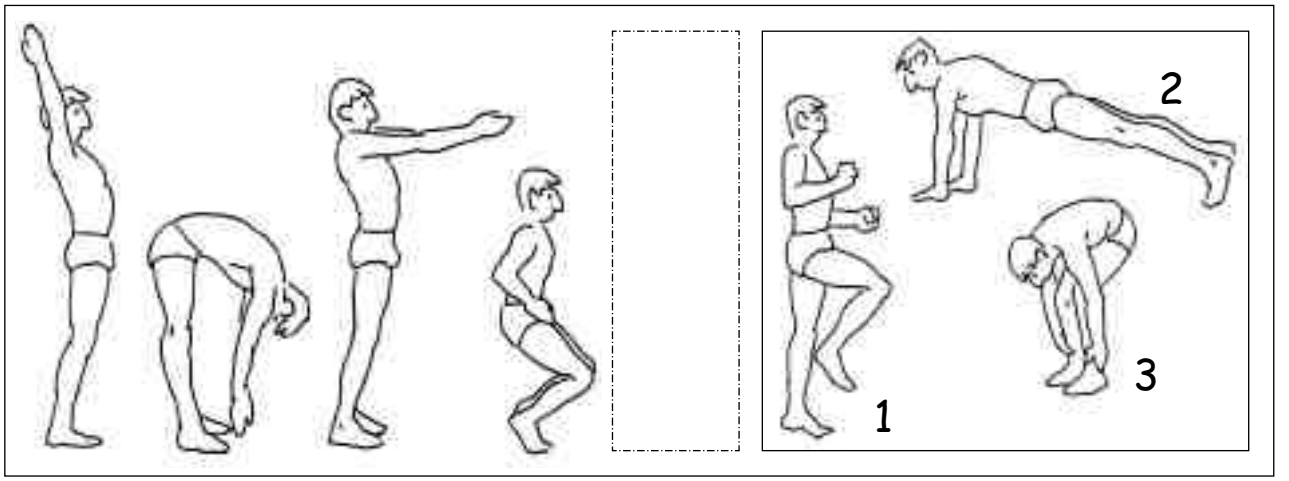





Completa cada una de las series con una de las figuras de los cuadros de la derecha. Después, explica por qué has elegido esas figuras.

Ficha
15

Un castillo muy raro

Nombre _____ Fecha _____



Rodea con un círculo todo lo que está fuera de lugar.

Conversaciones telefónicas

Nombre _____ Fecha _____



¿Con quién habla cada niño? Colorea:

- Del mismo color, los nombres de los niños que hablan entre sí.

¿Con qué mano sostienen el teléfono? Colorea:

- De amarillo, los niños que sostienen el teléfono con la mano derecha.
- De verde, los niños que sostienen el teléfono con la mano izquierda.

Ficha
17

La hora del recreo

Nombre _____ Fecha _____



1 2 3 4 5

Esta escena está incompleta.

- Busca los tres trozos que faltan entre los cuadros de abajo e indica dónde va cada uno de ellos.
- Completa la escena, dibujando cada cuadro en el lugar correspondiente. También los puedes recortar y pegar encima de los espacios en blanco.

Ficha
18

¡Cuidado con las pirañas!

Nombre _____ Fecha _____



Marca el camino que tiene que seguir el submarinista para llegar al bote sin tropezar con las pirañas.

Ficha
19

La danza de los indios

Nombre _____ Fecha _____



Cuando terminen la danza, los indios se tienen que retirar a sus tiendas.

Sigue las flechas y escribe en cada tienda el número del indio que corresponde.

Ficha
20

El dibujo misterioso

Nombre _____ Fecha _____

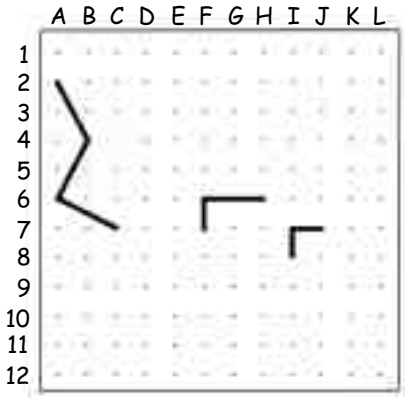

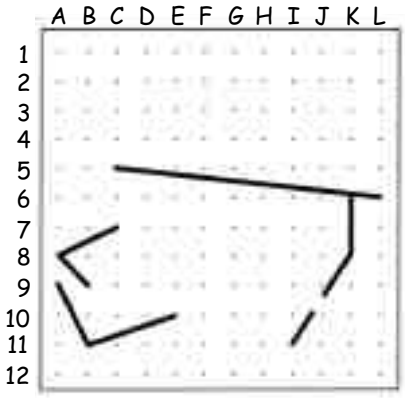

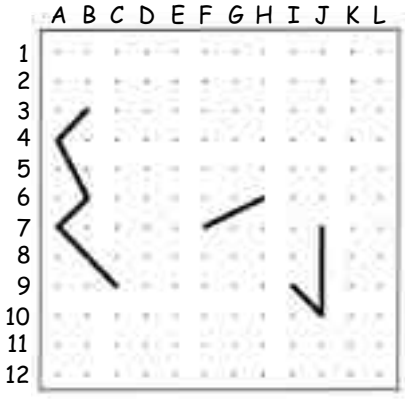

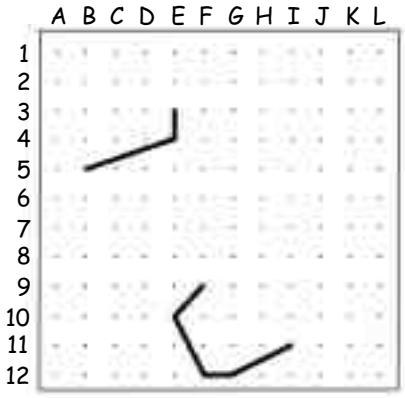

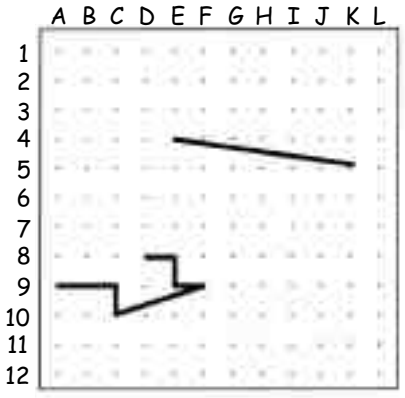

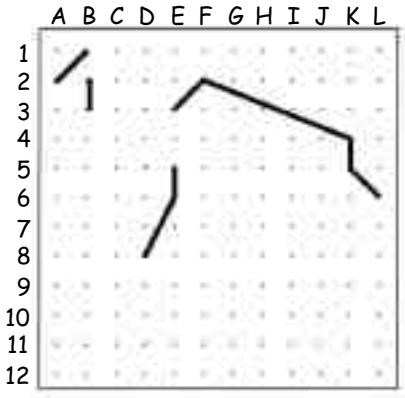

Copia todas las líneas de los cuadros pequeños en el cuadro grande de abajo y descubre el dibujo oculto.

Ten cuidado de copiar las líneas en la fila y en la columna correspondientes.

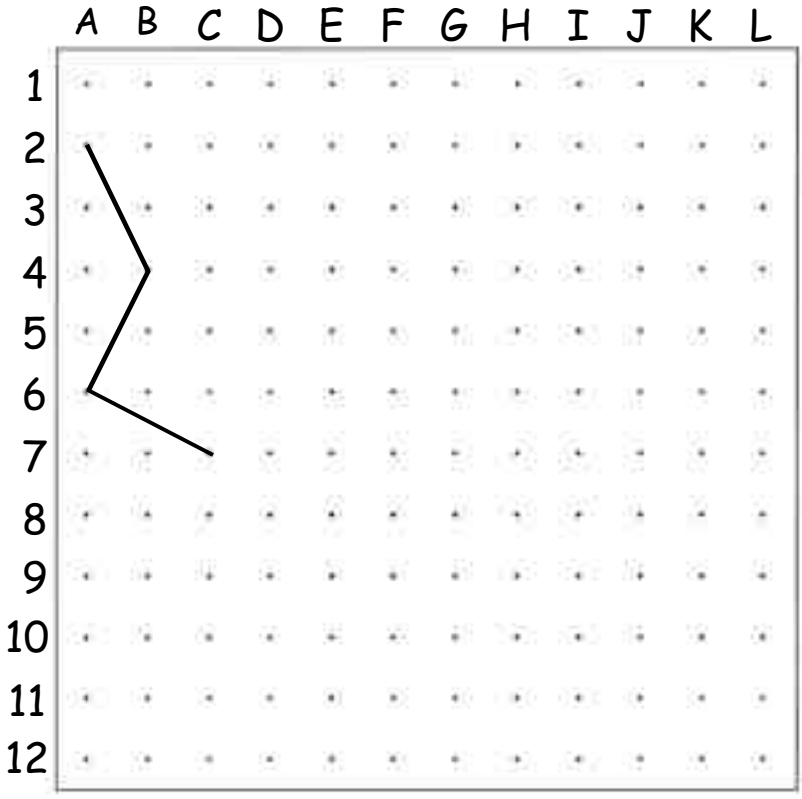

Ficha
21

¿Dónde están la dama y el caballero?

Nombre _____ Fecha _____



Une con rayas los siguientes puntos y averigua en dónde están el caballero y la dama.

S7 – S1 – N1 – M2 – G2 – F1 – C1 – C2 – D2 – D3 – C3 – C4 – D4 – D5 – C5 – C6 – F6 – G5 – J5 – J6 – I6 – I8 – J8 – J9 – I9 – I11 – J11 – J12 – I12 –I14 – J14 – J15 – F15 – E14 – A14 – A15 – B15 – B16 – A16 – A17 – B17 – B18 – A18 – A19 – E19 – F18 – M18 – N19 – S19 – S11 – O11 – Ñ10 – N9 – O7 – S7

E3 – E4 – F4 – F3 – E3

C16 – C17 – E17 – E16 – C16

Ficha
22

La colección de jarrones

Nombre _____ Fecha _____



¿Qué jarrones son? Observa los jarrones situados en el cuadro de arriba y completa los tres jarrones de abajo, siguiendo el modelo correspondiente.

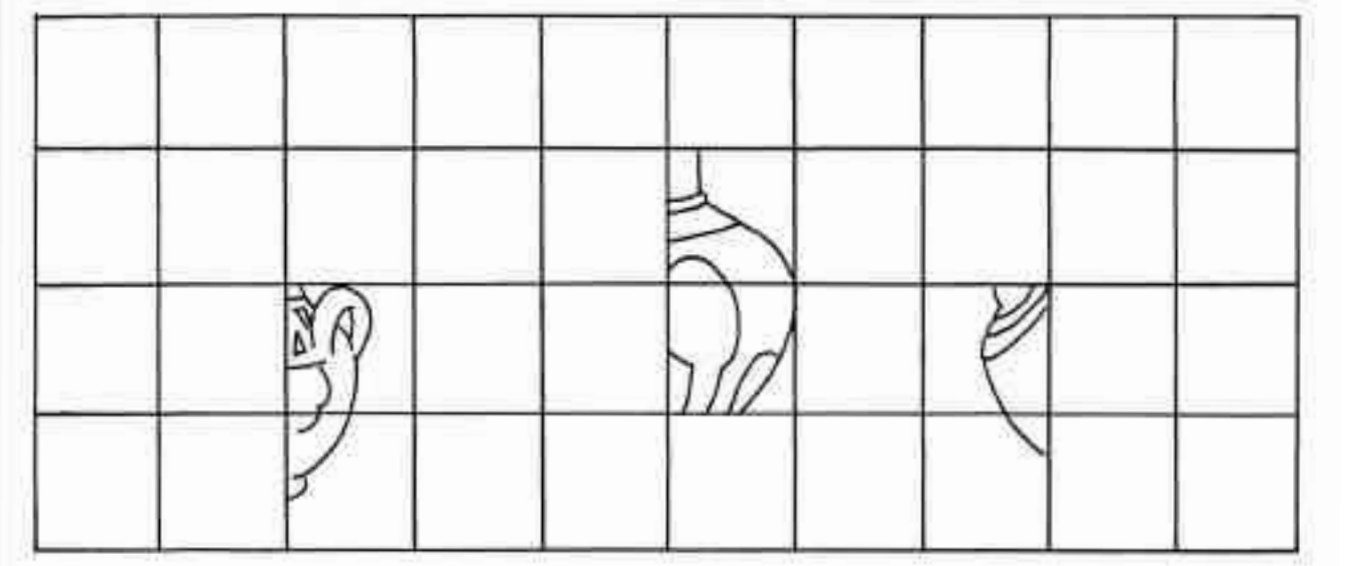

El reloj y el calendario

Nombre _____ Fecha _____



Observa estas escenas.

- Une con una línea cada cuadro de la izquierda con el cuadro de la derecha que se relaciona.
- Completa los dibujos de la derecha con las hojas de calendario y los relojes correspondientes.

Ficha
24

Una carrera accidentada

Nombre _____ Fecha _____



¡Qué carrera tan rara!

Ordena las viñetas de esta historia y averigua qué ocurre.

Escribe los números del 1 al 7.

Ficha
25

Día de excursión

Nombre _____ Fecha _____



Ordena las viñetas de esta historia. Escribe los números del 1 al 8. Después, explica qué sucede.

Ficha
26

Los animales de la granja

Nombre _____ Fecha _____



pa	ne	o	ma	lli			
vo	na						
lo		ga			to		
llo				pa			
jo	pa	ga	co		ca		

Forma con las sílabas del cuadro los nombres de los animales de la granja y escríbelos en las cartelas correspondientes.

Después, colorea con el mismo color las sílabas que forman cada nombre y el animal al que se refieren.

Ficha
27

Palabras partidas

Nombre _____ Fecha _____



Combina las sílabas de los carteles de los niños con las sílabas de las cometas y forma nueve palabras.

Ficha
28

¿A quién espera Quique?

Nombre _____ Fecha _____

Quique y sus amigos esperan a un amigo que está en el mar.
Para averiguar quién es, tacha las letras repetidas que aparecen en el muro y ordena las letras que te queden.

Crucigrama viajero

Nombre _____ Fecha _____



¿Qué se puede encontrar viajando por el mundo? Completa el crucigrama.

1. En el Polo Norte viven unas aves muy simpáticas que no vuelan pero nadan muy bien.
2. En África hay grandes extensiones de arena que se atraviesan en camello.
3. En Egipto hay unos grandes monumentos que los faraones empleaban como tumbas.
4. Los antiguos habitantes de Estados Unidos vivían en tipis.
5. En las selvas de la India habitan unos hermosos animales que parecen grandes gatos.
6. Para viajar de una forma rápida se utiliza un medio de transporte que tiene alas.

Chicos del mundo

Nombre _____ Fecha _____



Averigua el nombre de cada niño y escríbelo en el lugar correspondiente.

- Juan es colombiano. Tiene el cabello oscuro y le gusta pintar.
- Li, la niña china, lleva un vestido de flores y una flor en el pelo.
- Magú es de Senegal. Tiene el pelo rizado y le gusta nadar.
- Sonia, la niña española, es rubia y le gusta practicar deporte.
- Aref es marroquí y tiene muchos amigos con los que juega al fútbol.

Ficha
31

La manada

Nombre _____ Fecha _____

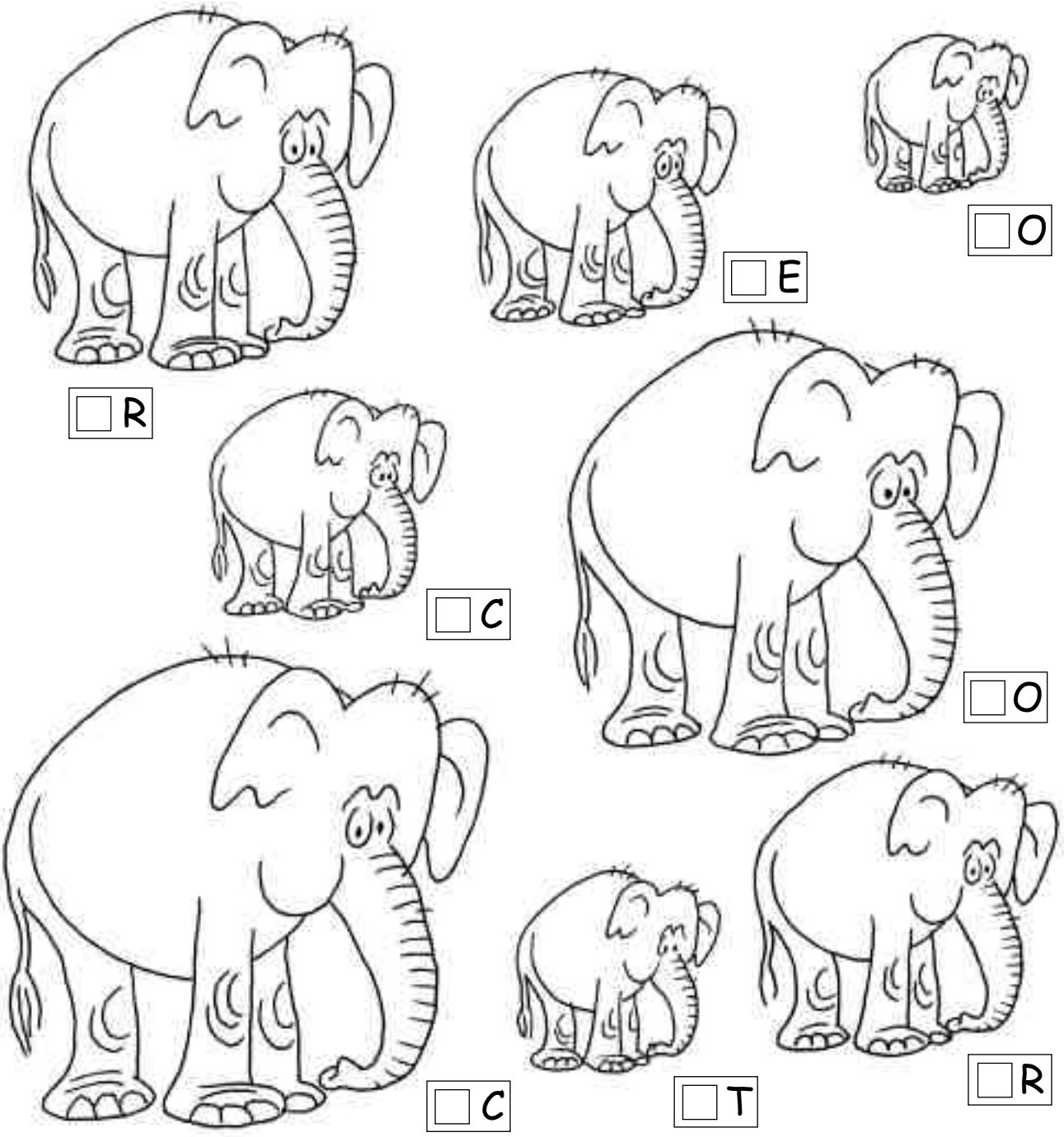

Ordena los elefantes de esta manada del más grande al más pequeño. Escribe los números del 1 al 8.
Después, coloca las letras por el orden de su número y sabrás si lo has hecho bien.

1	2	3	4	5	6	7	8

Un combate desigual

Nombre _____ Fecha _____

Une los puntos en el orden en el que aparecen y averigua qué le asusta al boxeador.



Ficha
33

El estanque de la escuela

Nombre _____ Fecha _____

En el jardín de la escuela han construido un estanque. Para adornarlo igual que este dibujo, los alumnos de 3.º han hecho una colecta y han recaudado 100 euros. ¿Tendrán suficiente dinero?, ¿les sobrará algo?

Observa el dibujo y calcula el dinero que necesitan los alumnos de 3.º.





Ficha
34

Una carrera especial

Nombre _____ Fecha _____

¿Quién llegará primero? En esta carrera todos los atletas corren a la misma velocidad. Por ello, ganará la carrera el que corra por la pista más corta.

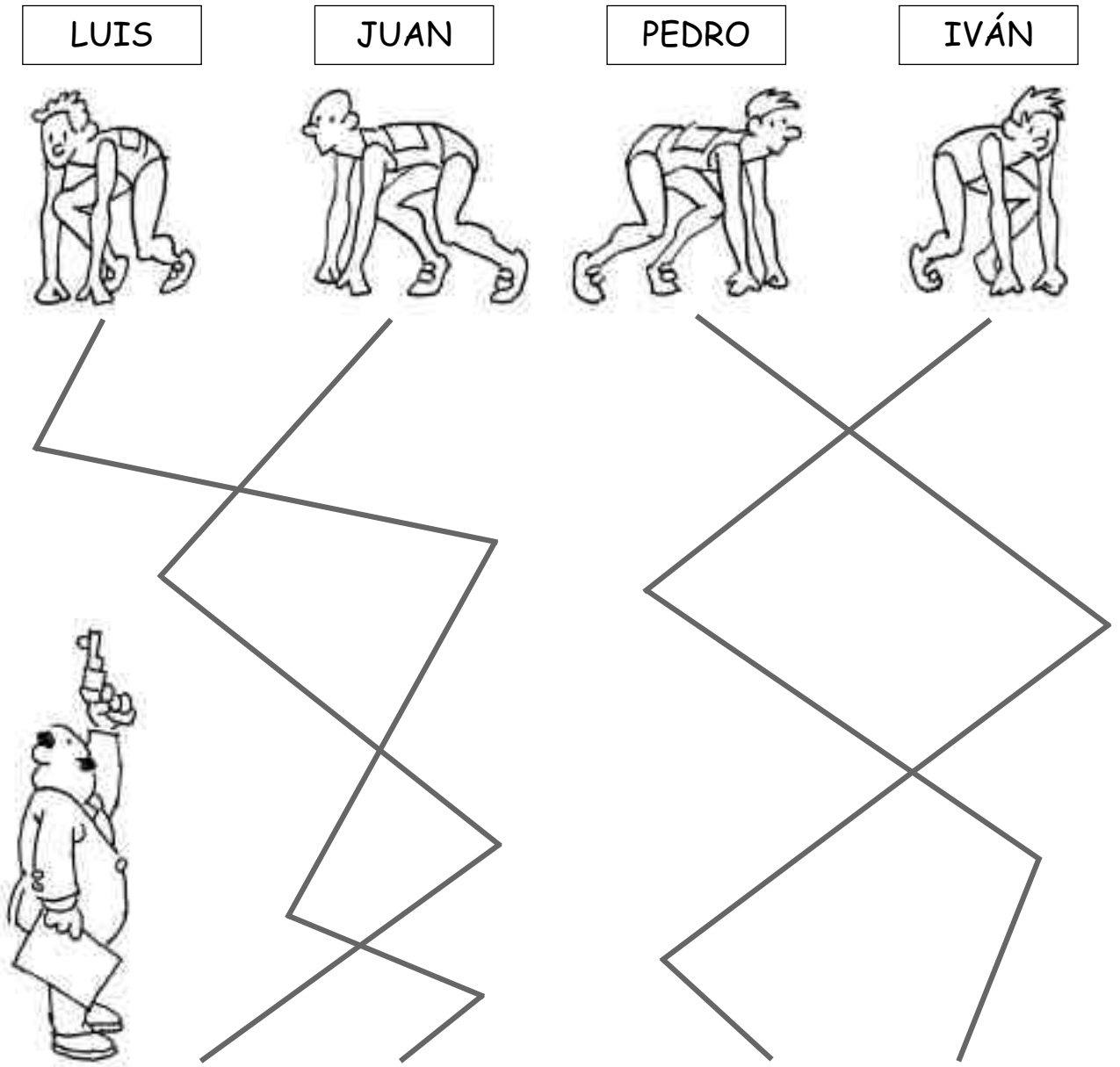

Observa las pistas por las que corren los atletas y escribe sus nombres por orden de llegada.

1.º _____

2.º _____

3.º _____

4.º _____

Ficha
35

La mermelada de la abuela

Nombre _____ Fecha _____

Lee y completa la tabla.

	Familia López	Familia Sanz	Familia Díaz	Familia Ruiz
Cerezas	____ g	____ g	____ g	____ g
Fresas	____ g	____ g	____ g	____ g
Frambuesas	____ g	____ g	____ g	____ g
Azúcar	____ g	____ g	____ g	____ g

- La familia López consume cada mes 6 botes de mermelada.
- La familia Sanz está compuesta por mamá, papá, la abuela y tres hijos. Cada uno de ellos consume 2 botes de mermelada al mes.
- La familia Díaz consume al mes la mitad de botes de mermelada que la familia Sanz.
- La familia Ruiz consume al mes el doble de botes de mermelada que la familia López.

MATERIAL GRATUITO

Descarga nuestros cuadernillos y actividades gratuitos de inicial, preescolar y primaria para imprimir desde nuestra página web.

MATERIAL PARA MAESTROS

www.materialparamaestros.com

SIGUEME EN LAS REDES SOCIALES

Material Para Maestros