PROFA. KEMPIS

Mi cuadernillo vacacional

3° repaso

Nombre del alumno(a):

Material gratuito

Español "El instructivo"

¿Cómo buscarlo en YouTube?

Profa Kempis el instructivo

Observa el video
https://www.youtube.com/watch?v=OcQ3yVDYFrk

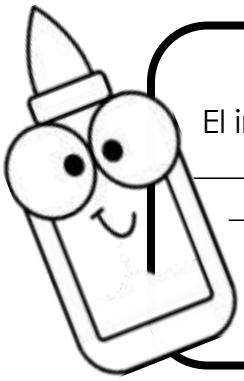

El instructivo es un conjunto de _____ o indicaciones _____ que tienen una _____.



Elementos de un instructivo

- _____
- _____
- _____
- _____

Recorta escribe en el rectángulo las partes del instructivo.

Señor cabeza de pasto

- Una media de algodón
- Semillas de alpiste (20 gramos)
- 50 gramos de tierra
- 3 ligas
- Dos botones
- Un vaso de plástico

1. Coloca en la media las semillas de alpiste, después, agrega los 50 gramos de tierra.
2. Con las ligas dar la forma a la cabeza.
3. Haz unos ojos con los botones
4. Finalmente, llena el vaso con agua e introduce el muñeco.

Español "El resumen"

¿Cómo buscarlo en YouTube?

Profa. Kmepis el resumen

Observa el video y realiza las actividades:
https://www.youtube.com/watch?v=TkbTecIAEuU



En el resumen se _____ la información y se limita a _____ las ideas más _____, es decir, excluye los datos _____ y no brinda _____, críticas ni la identidad de quien está realizando la _____.

¿Cuál es el paso 3 para hacer un resumen?

_____
_____
_____

Oraciones tópicas

_____
_____

Para comprobar si se ha subrayado correctamente, se pueden formular _____ sobre el _____ y si las respuestas están contenidas en las _____ o _____ subrayadas, entonces el subrayado _____.

Oraciones de apoyo

_____
_____



Tema

Es la idea _____ que identifica o _____ de qué trata el texto

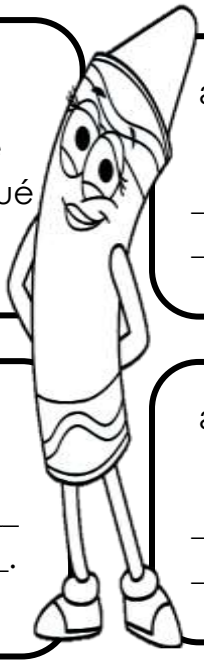

¿Cuál es el paso 4 para hacer un resumen?

_____
_____



Subtema

Son los temas _____ que se tratan en el _____.

¿Cuál es el paso 5 para hacer un resumen?

_____
_____

Español "Anuncios clasificados"

Observa el siguiente video
https://www.youtube.com/watch?v=y-VtNPQi4gI

¿Cómo buscarlo en YouTube?

Profa Kempis anuncios clasificados

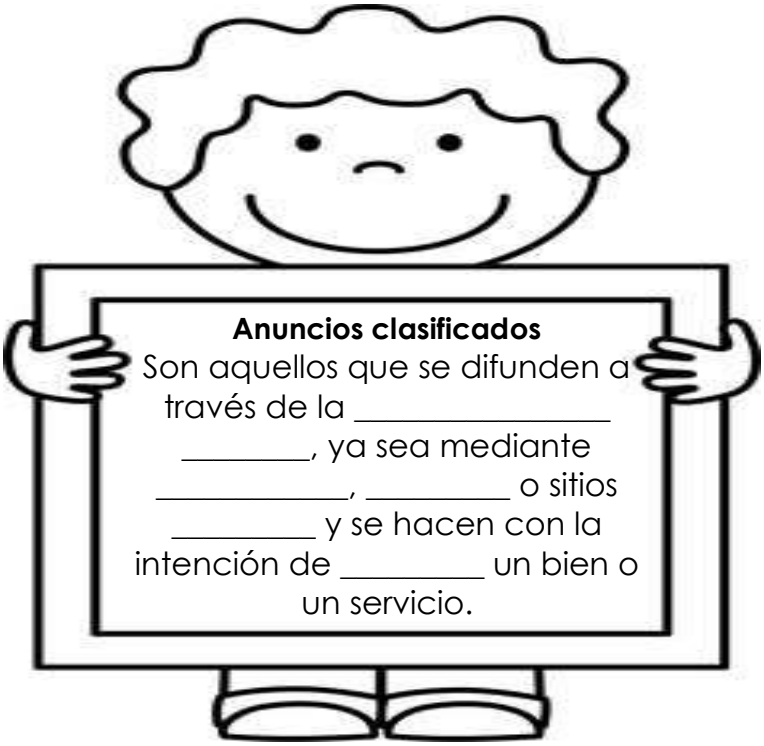

Anuncios clasificados
Son aquellos que se difunden a través de la _____ _____, ya sea mediante _____, _____ o sitios _____ y se hacen con la intención de _____ un bien o un servicio.

Tipos de anuncio clasificado

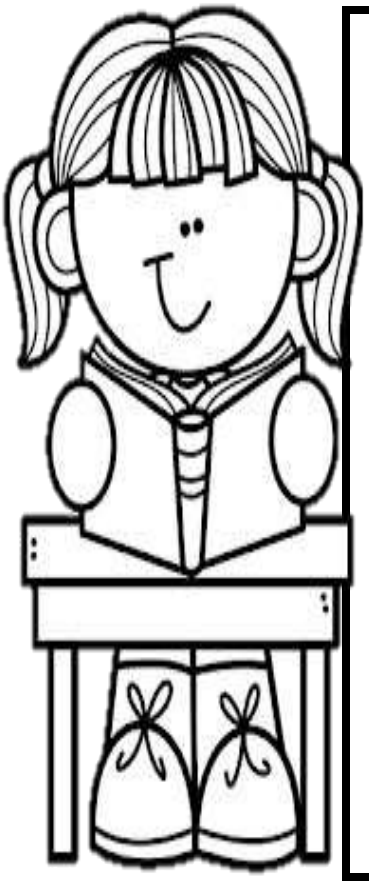

Partes del anuncio clasificado

_____

Permite identificar lo que se anuncia

Cuerpo del texto
Explica de manera _____ lo que busca el anuncio, las _____ del bien o _____ que se ofrece o busca.

_____

Son los datos que nos permiten comunicarnos con quien ofrece o _____ el servicio o producto

Imagen
Pueden o no ser _____.
Refuerza _____
_____

Español "Anuncios clasificados"

Escribe en las flechas las partes del anuncio y escribe que tipo de anuncio es.

Casa en venta

- 3 habitaciones
- 2 baños
- Cocina, comedor, sala
- Garaje para 2 vehículos

Ubicación: Calle Francisco I. Madero, Colonia Las flores

TEL. (77) 589142 551

Tipo de anuncio: _____

Solicito jardinero

Con experiencia
Tiempo completo
Horario de lunes a viernes
de 9 a.m. a 6 p.m.

Comunicarse al:

789 288 554 521

Tipo de anuncio: _____

Español "El reporte de lectura"

¿Cómo buscarlo en YouTube?

Profa Kempis el reporte de lectura

Observa el siguiente video

https://www.youtube.com/watch?v=lmGH0VKtFgE

Selecciona un texto de tu libro de lecturas y realiza un reporte de lectura:

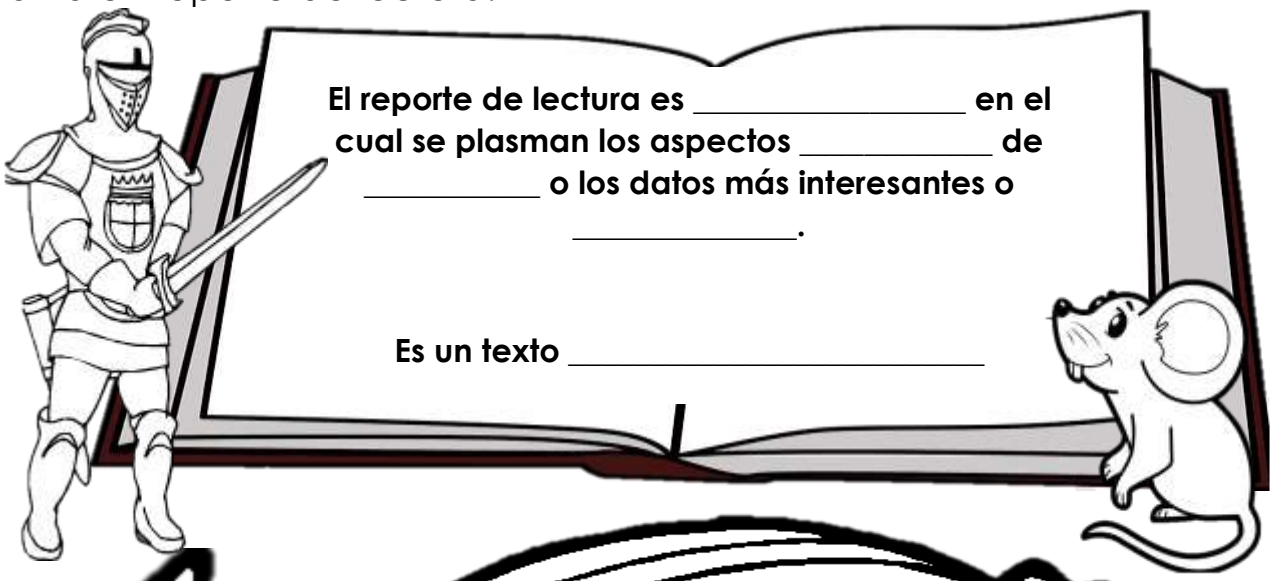

El reporte de lectura es _____ en el cual se plasman los aspectos _____ de _____ o los datos más interesantes o _____.

Es un texto _____

_____

_____

_____

_____

_____

_____

_____

_____

_____

_____

_____

Matemáticas "Cálculo mental"

Observa el video y resuelve con cálculo mental:

https://www.youtube.com/watch?v=mz5WZAqSDQk&t=317s

¿Cómo buscarlo en YouTube?

Profe Carbajal Cálculo mental

Si tienes $45 y quieres comprar un muñeco que cuesta $98, ¿Cuánto te hace falta?

_____

Si tu mamá te da $38 quieres comprar un balón que cuesta $87, ¿Cuánto te hace falta?

_____

Juan quiere comprar unos tenis que cuestas $848 pero sólo tiene $525 ¿Cuánto le hace falta?

_____

Si tienes $126 y quieres comprar un pantalón que cuesta $319 ¿Cuánto te hace falta?

_____

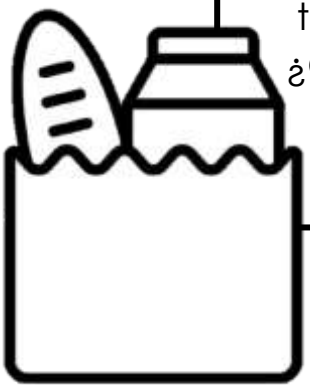

Pedro pagará $1000 por sus compras, pero sólo tiene $785 en efectivo ¿Cuánto le hace falta?

_____

Mariana desea comprar una mochila que cuesta $488 pero sólo tiene $136 ¿Cuánto le hace falta?

Matemáticas "Medios, cuartos y octavos"

¿Cómo buscarlo en YouTube?

Observa el siguiente video

https://www.youtube.com/watch?v=i1kwT8cj6Bw

Profa Kempis Fracciones: medios, cuartos y octavos

La fracción es _____ de un _____ llamado _____

Representa las fracciones que se te indican:



$\frac{1}{2}$

$\frac{1}{4}$

$\frac{3}{4}$



$\frac{2}{4}$

Escribe la fracción que se está coloreada en cada imagen.

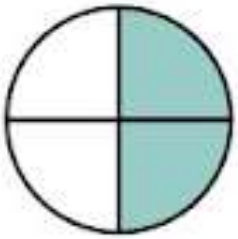

_____

_____



_____

Matemáticas "Medios, cuartos y octavos"

Fracciona las pizzas y dibuja la cantidad de pizza que comerá cada niño.

Yo quiero $\frac{1}{4}$ de pizza

Yo quiero $\frac{3}{8}$ de pizza

Yo quiero $\frac{1}{2}$ de pizza

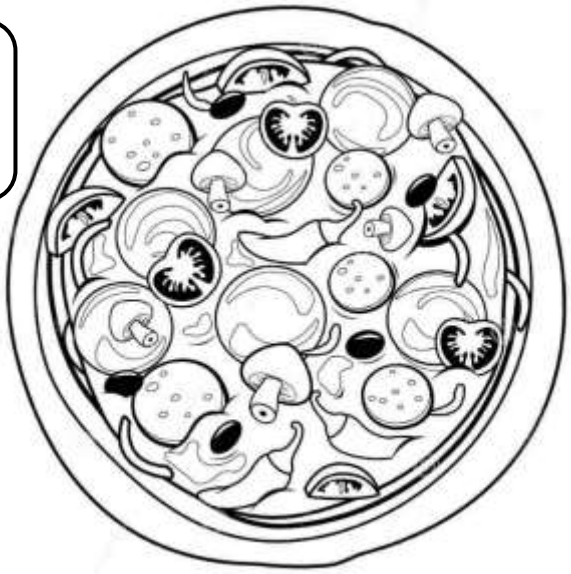

Matemáticas: Sucesiones numéricas

¿Cómo buscarlo en YouTube?

Profa Kempis Sucesiones numéricas

Observa el siguiente video y resuelve las sucesiones

https://www.youtube.com/watch?v=TD_PRwp52r4

Observa las siguientes series, recorta y pega los centros de la flor para armar cada una de las series numéricas.







495 1430 1950 1750 615 1450 1510 2200

Matemáticas "Sumas y restas de fracciones con el mismo denominador"

¿Cómo buscarlo en YouTube?

Observa el video y resuelve las actividades:
https://www.youtube.com/watch?v=CvNwXKmg5TU

Profa Kempis sumas y restas de fracciones con el mismo denominador

Escribe el nombre que recibo y lo que representa cada número de la fracción.

$$\frac{4}{6}$$

Resuelve las siguientes sumas y restas de fracciones:

$$\frac{2}{4} + \frac{3}{4} = ___$$

$$\frac{2}{8} + \frac{4}{8} = ___$$

$$\frac{5}{8} + \frac{3}{8} = ___$$

$$\frac{5}{4} + \frac{6}{4} = ___$$

$$\frac{3}{2} - \frac{1}{2} = ___$$

$$\frac{6}{8} - \frac{4}{8} = ___$$

Entidad donde vivo "Entidad federativa"

¿Cómo buscarlo en YouTube?

Profe Carbajal la entidad federativa

Observa el video y resuelve las actividades:
https://www.youtube.com/watch?v=WyEH1QzCxH8

¿Qué es una entidad federativa?

_____
_____
_____
_____

¿De qué otra manera también se llama la entidad federativa?

_____
_____

¿Cuál es el significado de tu entidad federativa?

_____
_____
_____
_____

¿En qué se encuentran divididos los estados?

_____
_____
_____

Colorea la entidad federativa donde vives y escribe su nombre.

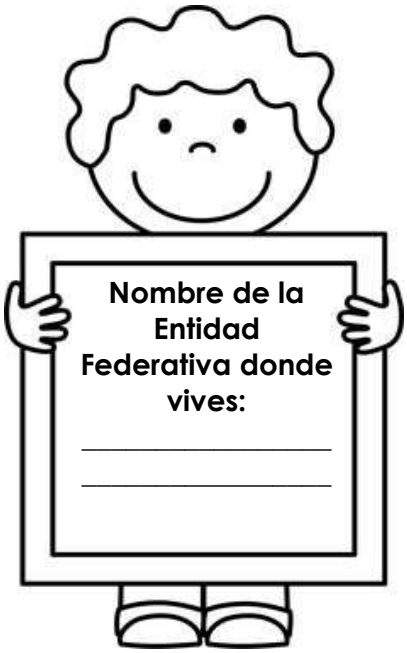

Ciencias Naturales "Máquinas simples"

¿Cómo buscarlo en YouTube?

Profa Kempis Las máquinas simples

Observa el siguiente video
https://www.youtube.com/watch?v=3FHuwGzCPHE&t=7s

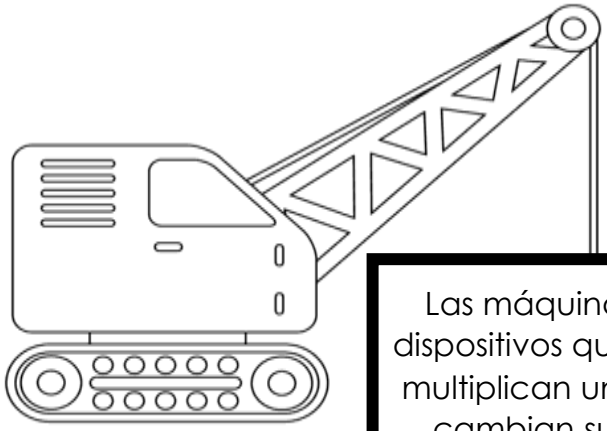

Las máquinas simples son dispositivos que _____ o multiplican una _____ o cambian su _____.

La fuerza puede hacer que un cuerpo se _____, se _____ o incluso se deforme.

Completa la definición de cada una de las máquinas simples

Plano inclinado

También conocido como la _____. Es una máquina simple que _____ la fuerza aplicada al _____ o _____ objetos pesados.

cuña

Se utiliza para _____ _____, esta hecha de dos _____, estos se unen formando un extremo con _____.

palanca

Formada por una _____ _____ que puede moverse libremente sobre un _____ llamado _____.

tornillo

Es un _____ _____ _____ que se usa para _____ _____

polea

Se compone de una _____ por la que se hace pasar una _____.

¡FELICES VACACIONES!

¡No se te olvide seguirnos en nuestras redes para más material!

En estas páginas encuentras todo el material de forma gratuita

https://www.facebook.com/Profa-Kempis-105813251593792

https://www.youtube.com/channel/UC4mKdEYyM-zZZmkjRsaYENw

https://www.youtube.com/channel/UC_HhjSoJRyfHVrkqoYHEi8w