PROFA. KEMPIS

Mi cuadernillo vacacional

5° repaso

Nombre del alumno(a):

Material gratuito

Español "Los adjetivos calificativos"

¿Cómo buscarlo en YouTube?

Observa el siguiente video

https://www.youtube.com/watch?v=TAI3jb-xjV0

Profa Kempis Adjetivo calificativo



Los adjetivos calificativos acompañan a los _____

Son aquellas _____ que expresan una _____, una información o una característica del _____, ya sea este una persona, un _____, un objeto o un _____.

Los sustantivos son palabras que sirven para _____ los seres vivos o las cosas _____ o _____

- Encierra con verde los sustantivos:

jugo **roio** **rana** **alto** **bonita** **claro** **tortuga** **niña** **castillo**

- Describe a la bruja, escribiendo los adjetivos calificativos con rojo:

Español “El reporte de lectura”

¿Cómo buscarlo en YouTube?

Profa Kempis el reporte de lectura

Observa el siguiente video

https://www.youtube.com/watch?v=lmGH0VKtFgE

Selecciona un texto de tu libro de lecturas y realiza un reporte de lectura:

El reporte de lectura es _____ en el cual se plasman los aspectos _____ de _____ o los datos más interesantes o _____.

Es un texto _____

_____

_____

_____

_____

_____

_____

_____

_____

_____

_____

_____

Español "Recursos literarios en el poema"

¿Cómo buscarlo en YouTube?

Profa. Kempis Recursos literarios en el poema

Observa el siguiente video y señala los recursos literarios que tiene el siguiente poema:

https://www.youtube.com/watch?v=qnD199ks5fw

"La semilla dorada"

En su camita de tierra
descansaba la semilla dorada
algunas gotitas de la lluvia
entraron a despertarla.

El Sol se acercó un poquito
y le regaló su calor.
La semilla rompió su traje,
hizo fuerza … y se estiró.

Se asomó muy curiosa
y el mundo descubrió.
Así la semilla dorada
en planta se convirtió.

- ¿Cuántos versos tiene el poema?_____
- Encierra con verde las estrofas, ¿Cuántas son?_____
- El lenguaje _____ es el uso creativo de las _____ para expresar algo de manera _____. En el poema de "La semilla dorada" una frase con este lenguaje puede ser:
  _____
- La _____ es cuando la sílaba _____ de una palabra termina en _____ y la inicial de la siguiente inicia en _____.
  ¿En este poema hay sinalefa? _____
  ¿Cuál verso tiene sinalefa?
  _____

Símil:

Se _____ cosas distintas dándole características una a la _____. Un ejemplo sería:
_____

Metáfora:

Es una comparación _____ , no se escriben _____ de enlace. Un ejemplo sería:
_____

Español “Inventar un cuento”

Observa las imágenes y después inventa un cuento:



Dibuja y describe a tu personaje principal:

Matemáticas “Restas de fracciones

¿Cómo buscarlo en YouTube?

Observa el siguiente video para que puedas realizar las siguientes operaciones con excelentes resultados:

https://www.youtube.com/watch?v=eBGKV-rSK88

Profa Kempis Restas de fracciones con diferente denominador

$$\frac{7}{8} - \frac{1}{4} = \frac{\square}{\square} - \frac{\square}{\square} = \frac{\square}{\square}$$

$$\frac{10}{12} - \frac{2}{3} = \frac{\square}{\square} - \frac{\square}{\square} = \frac{\square}{\square}$$

$$\frac{3}{4} - \frac{1}{5} = \frac{\square}{\square} - \frac{\square}{\square} = \frac{\square}{\square}$$

$$\frac{7}{5} - \frac{1}{2} = \frac{\square}{\square} - \frac{\square}{\square} = \frac{\square}{\square}$$

Sebastián tiene una tienda de pinturas, en la bodega tenía 12/5 de pintura verde y solo se vendió 7/4 de pintura. ¿Cuánta ´pintura le quedó para vender durante la segunda semana?

Matemáticas "Cálculo mental"

Observa el video y resuelve con cálculo mental:

https://www.youtube.com/watch?v=mz5WZAqSDQk&t=317s

¿Cómo buscarlo en YouTube?

Profe Carbajal Cálculo mental

Si tienes $45 y quieres comprar un muñeco que cuesta $98, ¿Cuánto te hace falta?

_____

Si tu mamá te da $38 quieres comprar un balón que cuesta $87, ¿Cuánto te hace falta?

_____

Juan quiere comprar unos tenis que cuestas $848 pero sólo tiene $525 ¿Cuánto le hace falta?

_____

Si tienes $126 y quieres comprar un pantalón que cuesta $319 ¿Cuánto te hace falta?

_____

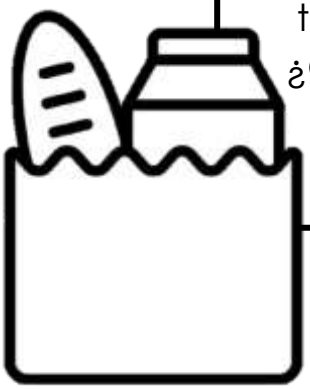

Pedro pagará $1000 por sus compras, pero sólo tiene $785 en efectivo ¿Cuánto le hace falta?

_____

Mariana desea comprar una mochila que cuesta $488 pero sólo tiene $136 ¿Cuánto le hace falta?

Matemáticas “Doble, triple y cuádruple de las fracciones”

Observa el siguiente video y completa la siguiente tabla:

https://www.youtube.com/watch?v=YH6nYIFJRu8

¿Cómo buscarlo en YouTube?

Profa. Kempis Doble, triple y cuádruple de fracciones

Fracción	Doble	Triple	Cuádruple
$\frac{1}{3}$			
$\frac{1}{5}$			
$\frac{3}{8}$			

- **Busca las fracciones que se te piden:**

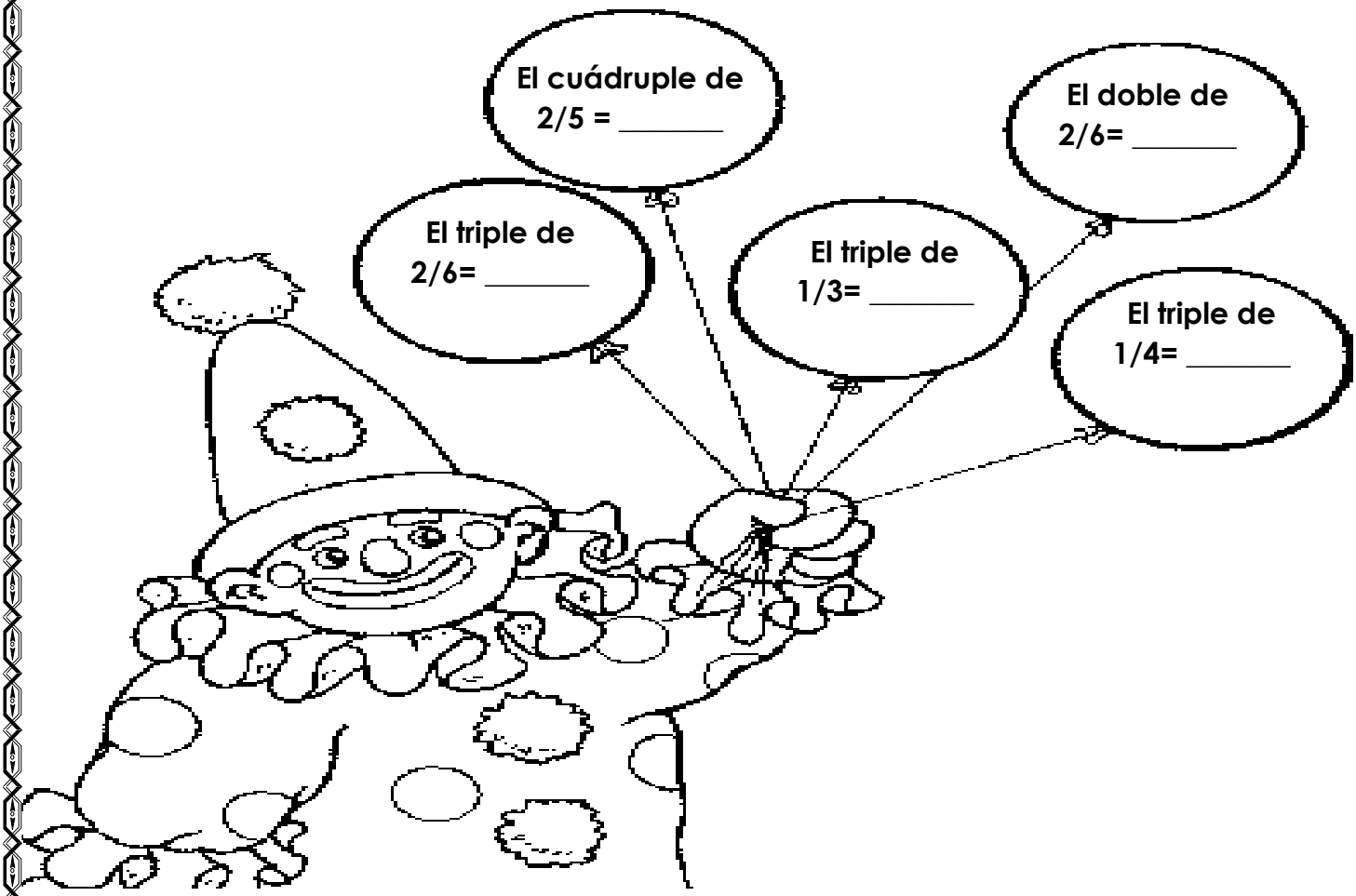

Matemáticas "Números romanos"

Lee las oraciones y transcríbelas en la otra ala de la mariposa con número romano o con el sistema de numeración decimal según corresponda:

Matemáticas “Resolver problemas de división”

¿Cómo buscarlo en YouTube?

Observa el siguiente video y sigue los pasos para resolver correctamente los problemas que se te presentan:

https://www.youtube.com/watch?v=2D4CgAQ1TDc

Profa Kempis La división/¿Cómo resolver problemas de división?

Don Federico tiene una parcela de 2106 m^2 y va a heredarla para sus 12 nietos. ¿Cuánto le tocará a cada nieto?



En la tienda departamental hay 1728 jabones, si cada día se han vendido 27 jabones. ¿En cuántos días se acabarán todos los jabones que hay en existencia?

Don Juan compró 67.5 kg de res y quiere repartirlo en 18 bolsas que pesen lo mismo para su venta individual. ¿Cuánto va a pesar cada bolsa?

Matemáticas "Multiplicación con números decimales"

Observa el siguiente video y sigue los pasos para resolver correctamente las siguientes multiplicaciones:

https://www.youtube.com/watch?v=3_3Iyo-uUMo

¿Cómo buscarlo en YouTube?

Profa. Kempis multiplicaciones con número decimal

$$\begin{array}{r} 0.909 \\ \times \quad 9.2 \\ \hline \end{array}$$

$$\begin{array}{r} 0.685 \\ \times \quad 8.1 \\ \hline \end{array}$$

$$\begin{array}{r} 89.5 \\ \times 3.5 \\ \hline \end{array}$$

$$\begin{array}{r} 57.2 \\ \times 1.7 \\ \hline \end{array}$$

$$\begin{array}{r} 6.35 \\ \times \ 0.6 \\ \hline \end{array}$$

Ordena los resultados de las multiplicaciones de menor a mayor:

Matemáticas “Área y perímetro”

¿Cómo buscarlo en YouTube?

Observa el siguiente video

https://www.youtube.com/watch?v=9rHABzOkVL4&t=61s

Profa Kempis Área y perímetros de las figuras geométricas

El perímetro es _____ del _____ de una figura.

El área es la medida de _____ de _____.

Marca de rojo el perímetro del rectángulo y colorea de azul su área

Obtén el área y perímetro de las siguientes figuras

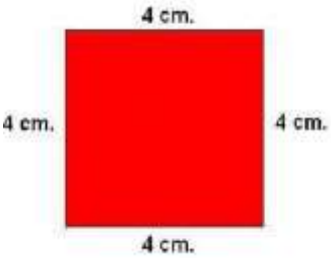

Área_____

perímetro_____

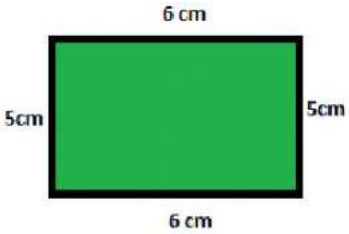

Área_____

perímetro_____

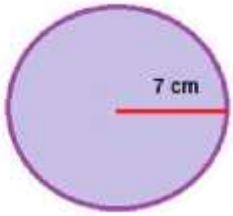

Área_____

perímetro_____

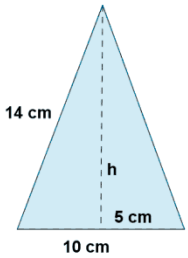

Área_____

perímetro_____

Geografía "Diversidad lingüística y cultural de México"

Aprendizaje esperado: Valora la diversidad cultural de la población en México

Observa el siguiente video y después realiza las actividades:
https://www.youtube.com/watch?v=NVC-QOxug_c&t=4s

¿Cómo buscarlo en YouTube?

profa kempis diversidad lingüística de méxico

¿Por qué se dice que nuestro país es multicultural?



Las lenguas que se agrupan en una _____, comparten semejanza en su _____, en cómo se escuchan, se _____ y se escriben, porque tienen un _____ histórico común.

Escribe el nombre de las 10 familias linguisticas de México:

*	*
*	*
*	*
*	*
*	*



Escribe una estrofa de un poema en español y en lengua indígena:

_____
_____
_____
_____
_____
_____
_____

_____
_____
_____
_____
_____
_____
_____

Geografía "Diversidad cultural del mundo

¿Cómo buscarlo en YouTube?

Profa kempis diversidad cultural del mundo

Observa el siguiente video y completa con lo que se te pide:
https://www.youtube.com/watch?v=pnOiY0Ckdjg

Ubica y colorea los idiomas predominantes de cada país.

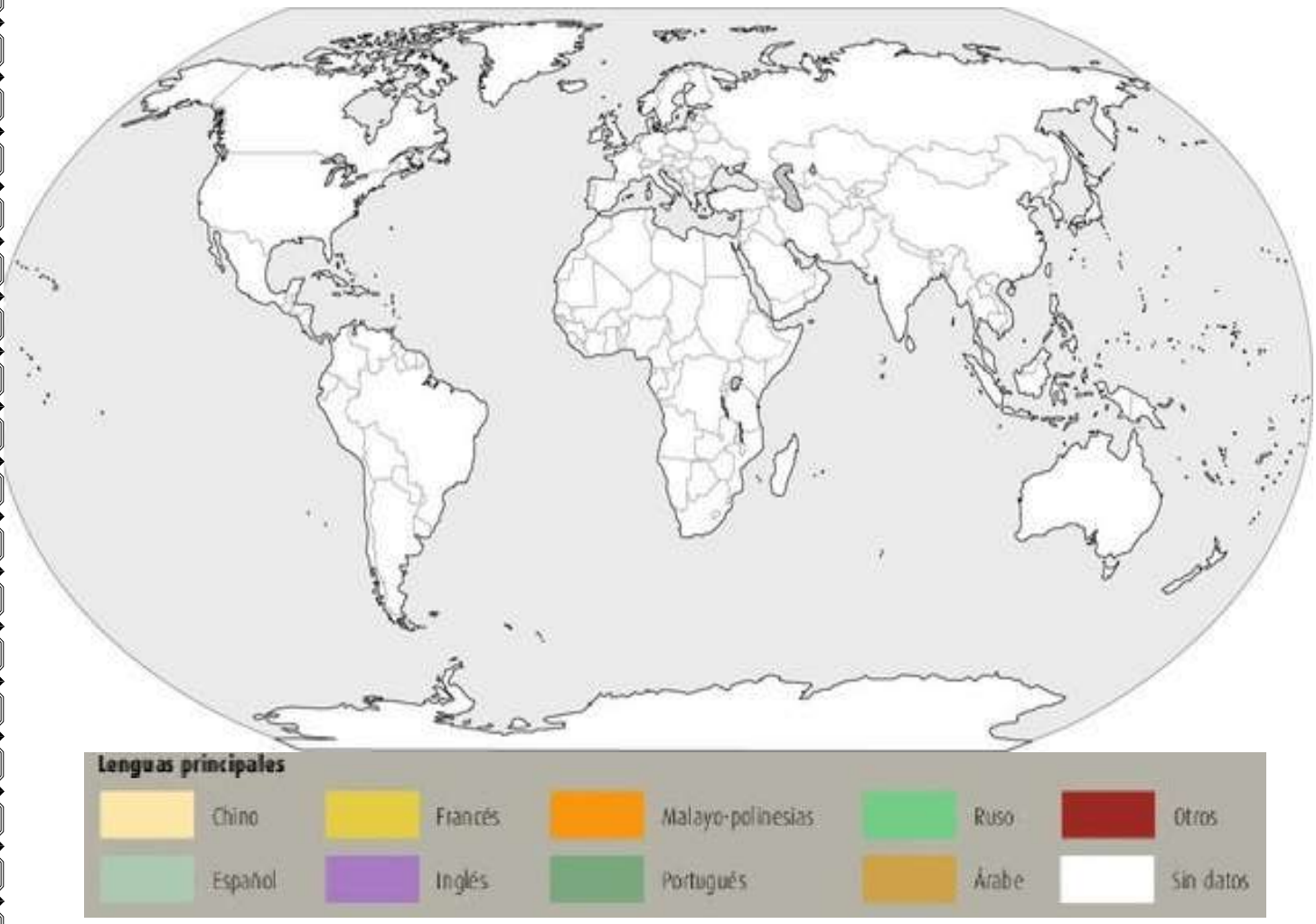

1. ¿Cuál es el idioma que más se habla en el mundo? _____
2. ¿Cuál es el idioma que menos se habla en el mundo? _____
3. ¿Cuál es la religión con la mayor cantidad de practicantes? _____
4. Una lengua tiende a _____ cuando sus habitantes _____ _____ con otra que tiene mayor difusión.
5. ¿Qué es cultura? _____, _____, _____, _____, _____, entre otros elementos.

Ciencias Naturales "Mezclas y métodos de separación"

Dibuja y escribe en qué consiste cada tipo de mezcla y dibuja un ejemplo de ella:

MEZCLA HOMOGÉNEA

EJEMPLO

MEZCLA HETEROGÉNEA

EJEMPLO

Escribe un método para separar las siguientes mezclas:

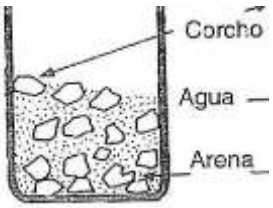

¡FELICES VACACIONES!

¡No se te olvide seguirnos en nuestras redes para más material!

En estas páginas encuentras todo el material de forma gratuita

https://www.facebook.com/Profa-Kempis-105813251593792

https://www.youtube.com/channel/UC4mKdEYyM-zZZmkjRsaYENw

https://www.youtube.com/channel/UC_HhjSoJRyfHVrkqoYHEi8w